1 НҰСҚА

1) Тақырыбы: Жер бедері (рельеф формалары)

Жер бетінің аз тілімденген, тегіс немесе белесті алқабын табыңыз.

A)Жазық

B)Ойыс

C)Ойпат

D)Таулы үстірт

Жауабы: A)Жазық

2)Тақырыбы: Азия елдерінің саяси географиясы (мемлекеттік құрылым түрлері)
Азияның федерациялы елдері.

A) Сауд Арабиясы, Пәкстан, Катар, Оман
B) Непал, Тайланд, Сингапур, ҚХР
C) БАӘ, Малайзия, Үндістан, Пәкстан
D) Непал, Индонезия, Лаос, Вьетнам

Жауабы: C) БАӘ, Малайзия, Үндістан, Пәкстан

3) Тақырыбы: Материктердің жер бедері (Солтүстік Америка)
Солтүстік Американың жер бедерінде басым нысандар

A) Таулар
B) Шөлдер
C) Ойпаттар
D) Жазықтар

Жауабы: D) Жазықтар

4) Тақырыбы: Еуразияның жер бедері (жанартаулар)
Еуразияның ең биік сөнбеген жанартауын табыңыз.

A) Везувий
B) Ключи шоқысы

C) Этна
D) Гекла

Жауабы: B) Ключи шоқысы

5) Тақырыбы: Дүниежүзілік көлдер географиясы
Әлемдегі таулы көлдердің ең ірісі.

A) Үлкен Еріксіздер көлі
B) Гурон
C) Титикака
D) Мичиган

Жауабы: C) Титикака

6) Тақырыбы: Қазақстанның экономикалық аудандары (халық саны)
Қазақстандағы халқы ең көп экономикалық аудан

A) Оңтүстік Қазақстан
B) Солтүстік Қазақстан
C) Батыс Қазақстан
D) Шығыс Қазақстан

Жауабы: A) Оңтүстік Қазақстан

Тақырыбы: Қазақстанның табиғат зоналары (топырақ)
Шөлейт зонаның топырағындағы қарашірік мөлшерін белгілеңіз.

A) 2–3%
B) 1%
C) 9%
D) 2–5%

Жауабы: A) 2–3%

8) Тақырыбы: Ресейдің көлік географиясы (сыртқы сауда)
Ресейдің сыртқы сауда байланыстарын жүзеге асыратын көлік түрі.

A) Автомобиль
B) Өзен көлігі

C) Теңіз көлігі
D) Теміржол

Жауабы: C) Теңіз көлігі

9) Тақырыбы: Мемлекеттердің басқару түрлері (саяси география)
Унитарлы мемлекет

A) Канада
B) Мексика
C) Франция
D) Бразилия

Жауабы: C) Франция

10) Тақырыбы: Қазақстан өнеркәсібі (химия өнеркәсібі)
Синтетикалық талшық жасау орталығын табыңыз.

A) Ақтау
B) Көкшетау
C) Қостанай
D) Шымкент

Жауабы: C) Қостанай

11) Тақырыбы: Географиялық қабық
Географиялық қабық бұл:

A) Атмосфераның жоғарғы қабаты, литосфераның төменгі қабаты, стратосфераның байланысы
B) Жер қабықтары атмосфера, гидросфера, биосфера және литосфераның өзара тығыз байланысы
C) Атмосфераның төменгі қабаты, литосфера, стратосфера, гидросфераның байланысы
D) Табиғат зоналарының ендік бойынша ауысу заңдылығы

Жауабы: B) Жер қабықтары атмосфера, гидросфера, биосфера және литосфераның өзара тығыз байланысы

12) Тақырыбы: Қазақстан өнеркәсібі (фармацевтика)
Дәрі-дәрмек шығаратын ірі зауыт орналасқан қала

A) Тараз
B) Ақтөбе
C) Ақтау
D) Шымкент

Жауабы: D) Шымкент

13) Тақырыбы: Дүниежүзінің халық географиясы (ұлттық құрамы)
Бірұлтты елдерді табыңыз.

A) Үндістан, Ресей, Канада
B) Қазақстан, Украина
C) Оңтүстік Африка, Польша
D) Жапония, Грекия, Португалия

Жауабы: D) Жапония, Грекия, Португалия

14) Тақырыбы: Дүниежүзілік шаруашылық (мұнай-газ өнеркәсібі)
Газ өндіруден жетекші елді табыңыз.

A) Норвегия
B) Ресей
C) Иран
D) Алжир

Жауабы: B) Ресей

15) Тақырыбы: Қазақстан өнеркәсібі (химия өнеркәсібі)
Азот тыңайтқыштарын өндіретін өндіріс орны бар қала

A) Ақтау
B) Шымкент
C) Өскемен
D) Ақтөбе

Жауабы: A) Ақтау

16) Тақырыбы: Географиялық зерттеу әдістері (өлшеу, масштаб)
100 м жүргенде бірінші рет 125, екінші рет 124, үшінші рет 126 қадам шықты. Бір қадамның орташа мөлшері

A) 1 м
B) 0,8 м
C) 0,75 м
D) 0,60 м

Жауабы: B) 0,8 м

17) Тақырыбы: Дүниежүзілік шаруашылық (мұнай өндіру, Азия елдері)
Мұнай өндіретін Азия елдері

A) Сауд Арабиясы, Кувейт
B) Филиппин, Моңғолия
C) БАӘ, Камбоджа
D) Индонезия, Тайланд

Жауабы: A) Сауд Арабиясы, Кувейт

18) Тақырыбы: Оңтүстік Американың саяси картасы (елдер)
Оңтүстік Америкадағы ең ірі елді белгілеңіз.

A) Бразилия
B) Венесуэла
C) Колумбия
D) Аргентина

Жауабы: A) Бразилия

19) Тақырыбы: Қазақстан өнеркәсібі (химия өнеркәсібі)
Пластмасса зауыты орналасқан қаланы анықтаңыз.

A) Ақтау
B) Орал
C) Атырау
D) Шымкент

Жауабы: A) Ақтау

20) Тақырыбы: Қазақстанның табиғат зоналары (топырақ)
Қуаң даланың топырағы

A) Қара топырақ
B) Қызылғылт күрең топырақ
C) Ашық қызғылт топырақ
D) Қоңыр және сұр қоңыр

Жауабы: B) Қызылғылт күрең топырақ

21) Тақырыбы: Қазақстанның табиғатты қорғау нысандары

Қазақстанда ерекше қайталанбас, болашақта табиғат ескерткіштері қатарына қосылатын нысандар саны

A) 75
B) 60
C) 40
D) 150

Жауабы: B) 60

22) Тақырыбы: Дүниежүзілік мұхит (су қасиеттері)

Мұхит суының басты қасиеттерін көрсетіңіз.

A) Органикалық дүниесінің көптүрлілігі
B) Фитопланктондардың әртүрлілігі
C) Тұздылығы мен тереңдік бойынша өзгеруі
D) Тұздылығы, температурасы

Жауабы: D) Тұздылығы, температурасы

23) Тақырыбы: Халық географиясы (қоныстану тарихы)

Адамдардың Еуразия жерін қоныстануы басталған аймақты табыңыз.

A) Қара теңіз маңы
B) Каспий теңізі маңы
C) Атлант мұхиты маңы
D) Жерорта теңізі маңы

Жауабы: D) Жерорта теңізі маңы

24) Тақырыбы: Африканың ауыл шаруашылығы

Африканың какао өсіретін елдері.

A) Кот-д’Ивуар, Гана, Нигерия
B) Алжир, Египет, Сенегал
C) Нигерия, Конго Демократиялық Республикасы
D) Египет, Судан, Чад

Жауабы: A) Кот-д’Ивуар, Гана, Нигерия

25) Тақырыбы: Қазақстанның ауыл шаруашылығы
Бау-бақша шаруашылығы таралған өңірді белгілеңіз.

A) Орталық
B) Солтүстік
C) Орталық
D) Оңтүстік

Жауабы: D) Оңтүстік

26) Тақырыбы: Дүниежүзінің саяси картасы
Түркия елі құрлық арқылы шектесетін мемлекет(-тер)

A) Румыния
B) Болгария
C) Сербия
D) Грузия
E) Греция
F) Венгрия

Жауабы: B) Болгария, D) Грузия, E) Греция

27) Тақырыбы: Қазақстанның экономикалық-географиялық жағдайы
Қазақстанмен шегаралас Ресей облыстары

A) Астрахан, Воронеж
B) Қорған, Омбы
C) Саратов, Қорған
D) Қорған, Орел
E) Орынбор, Тамбов
F) Омбы, Воронеж

Жауабы: B) Қорған, Омбы; C) Саратов, Қорған

28) Тақырыбы: Антарктиданың географиясы

Антарктиданың жағалауын шайып жатқан теңіз (-дер)

A) Росс теңізі
B) Коралл теңізі
C) Қариб теңізі
D) Охотск теңізі
E) Уэделл теңізі
F) Қызыл теңіз

Жауабы: A) Росс теңізі, E) Уэделл теңізі

29) Тақырыбы: Қазақстанның экономикалық-географиялық аудандары

Қарағанды мен Павлодар облыстарына тән белгі(-лер)

A) Екеуі де Алматы облысымен шектеседі
B) Екеуі де Ресей елімен шектеседі
C) Боксит қорлары мол
D) Әкімшілік аумақтары шекаралас орналасқан
E) Урбандалу деңгейі жоғары
F) Ауыл халқы басым шоғырланған

Жауабы: D) Әкімшілік аумақтары шекаралас орналасқан, E) Урбандалу деңгейі жоғары

30) Тақырыбы: Дүниежүзінің халық географиясы (халық тығыздығы)

Жер шарында халық тығыздығы жоғары аймақтар

A) Оңтүстік Азия
B) Батыс Европа
C) Шығыс Азия
D) Оңтүстік-батыс Азия
E) Латын Америкасы
F) Орта Азия

Жауабы: A) Оңтүстік Азия, B) Батыс Европа, C) Шығыс Азия

31) Тақырыбы: Материктер мен елдер географиясы

Викингтер бұл аралды «Мұзды жер» деп атаған. Аралды алып жатқан елді «ауа–райы асханасы» деп атайды, 1944 жылға дейін ол Данияға тәуелді болған. Бұл елдің

астанасы – әлемдегі ең солтүстікте орналасқан астана, оның атауы «түтіндер шығанағы» дегенді білдіреді.

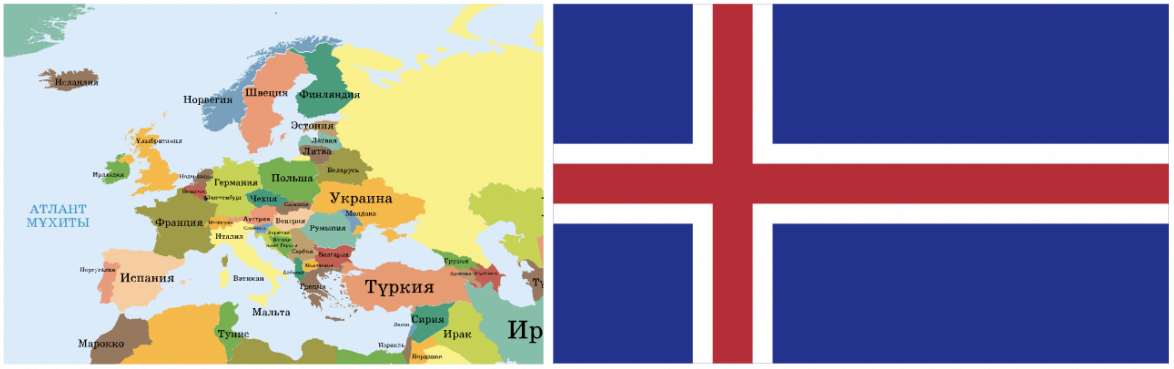

Картада қызыл түспен ерекшеленген ел орналасқан материк

A) Солтүстік Америка
B) Еуразия
C) Оңтүстік Америка
D) Африка

Жауабы: B) Еуразия

32) Тақырыбы: Материктер мен елдер географиясы

Викингтер бұл аралды «Мұзды жер» деп атаған. Аралды алып жатқан елді «ауа–райы асханасы» деп атайды, 1944 жылға дейін ол Данияға тәуелді болған. Бұл елдің астанасы – әлемдегі ең солтүстікте орналасқан астана, оның атауы «түтіндер шығанағы» дегенді білдіреді.

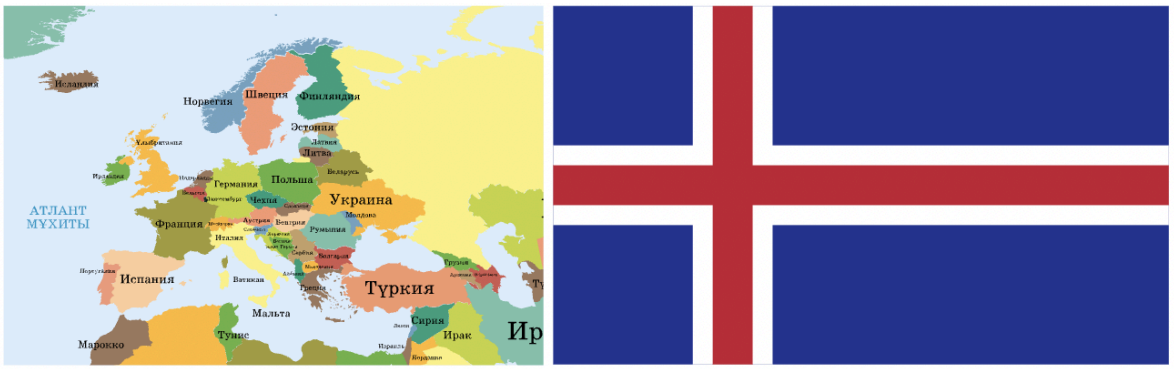

Мәтінде айтылып тұрған елдің ақша бірлігі

A) Вон
B) Манат
C) Крона
D) Лира

Жауабы: C) Крона

33) Тақырыбы: Материктер мен елдер географиясы

Викингтер бұл аралды «Мұзды жер» деп атаған. Аралды алып жатқан елді «ауа–райы асханасы» деп атайды, 1944 жылға дейін ол Данияға тәуелді болған. Бұл елдің астанасы – әлемдегі ең солтүстікте орналасқан астана, оның атауы «түтіндер шығанағы» дегенді білдіреді.



Әлемде ең солтүстікте орналасқан астана

A) Париж
B) Оттава
C) Берлин
D) Рейкьявик

Жауабы: D) Рейкьявик

34) Тақырыбы: Материктер мен елдер географиясы

Викингтер бұл аралды «Мұзды жер» деп атаған. Аралды алып жатқан елді «ауа–райы асханасы» деп атайды, 1944 жылға дейін ол Данияға тәуелді болған. Бұл елдің астанасы – әлемдегі ең солтүстікте орналасқан астана, оның атауы «түтіндер шығанағы» дегенді білдіреді.



«Мұзды жер» деген мағынаны білдіретін ел

A) Италия
B) Дания
C) Исландия
D) Испания

Жауабы: C) Исландия

35) Тақырыбы: Материктер мен елдер географиясы

Викингтер бұл аралды «Мұзды жер» деп атаған. Аралды алып жатқан елді «ауа–райы асханасы» деп атайды, 1944 жылға дейін ол Данияға тәуелді болған. Бұл елдің астанасы – әлемдегі ең солтүстікте орналасқан астана, оның атауы «түтіндер шығанағы» дегенді білдіреді.



Картада қызыл түспен берілген арал

A) Мадагаскар
B) Исландия
C) Отты Жер
D) Гренландия

Жауабы: B) Исландия

2 НҰСҚА

1) Тақырыбы: Дүниежүзінің халық географиясы (нәсілдер)
Орыс, украин, белорус халқының нәсілін табыңыз.

A) Экваторлық
B) Европеоидтық
C) Аустронезиялық
D) Аралас

Жауабы: B) Европеоидтық

2) Тақырыбы: Қазақстанның көлік географиясы
Еліміздегі жетекші көлік түрі.

A) Әуе жолы
B) Автомобиль жолы
C) Теміржол
D) Құбыр жолы

Жауабы: C) Теміржол

3) Тақырыбы: Климат қалыптастырушы факторлар (географиялық ендік)
Жердің ең ыстық белдеуінің тропиктер арасында орналасуының себебін көрсетіңіз.

A) Мәңгілік тоң, таулар және жазықтар
B) Географиялық ендік, атмосфера алмасуынан
C) Жауын-шашын, географиялық орынға байланысты
D) Күн дәл төбеде ұзақ және ауаның қозғалысы жоғары болады

Жауабы: D) Күн дәл төбеде ұзақ және ауаның қозғалысы жоғары болады

4) Тақырыбы: Қазақстанның мұнай өнеркәсібі
Ең алғаш пайда болған мұнай кәсіпшіліктері.

A) Доссор, Мақат
B) Доссор, Ракуша
C) Жаңаөзен, Амангелді
D) Теңіз, Жетібай

Жауабы: A) Доссор, Мақат

5) Тақырыбы: Күн жүйесі

Күн жүйесіндегі ғаламшарлар саны

A) 4
B) 7
C) 5
D) 8

Жауабы: D) 8

6) Тақырыбы: Қазақстанның экономикалық-географиялық жағдайы

Қазақстан мен Қытай арасындағы шекараның ұзындығын табыңыз.

A) 2300 км
B) 1782 км
C) 980 км
D) 380 км

Жауабы: B) 1782 км

7) Тақырыбы: Дүниежүзілік шаруашылық (қаржы жүйесі)

Несие-қаржылық қатынастардың атқаратын қызметі.

A) Резервтік валютаға бақылау жасау
B) Кен орындарын ашу
C) Қарыз, несиелер беру
D) Халықаралық форумдар ұйымдастыру

Жауабы: C) Қарыз, несиелер беру

8) Тақырыбы: Дүниежүзінің ауыл шаруашылығы (Өзбекстан)

Өзбекстанда өсірілетін негізгі дақылды табыңыз.

A) Күздік бидай
B) Күнбағыс
C) Зығыр
D) Мақта

Жауабы: D) Мақта

9) Тақырыбы: Халық географиясы (көші-қон)

Елге басқа мемлекет азаматтарының көшіп келуі

A) Урбанизация
B) Эмиграция
C) Иммиграция
D) Депопуляция

Жауабы: C) Иммиграция

10) Тақырыбы: География ғылымының дамуы (ғалымдар)

Географиядағы экологиялық бағыттың дамуына жол ашқан саяхатшыны табыңыз.

A) П. Семенов
B) Ш. Уәлиханов
C) Л.С. Берг
D) Н. Северцов

Жауабы: D) Н. Северцов

11) Тақырыбы: Дүниежүзінің елдері (астаналар)

Сауд Арабиясының астанасы.

A) Эр-Рияд
B) Абу-Даби
C) Сана
D) Доха

Жауабы: A) Эр-Рияд

12) Тақырыбы: Дүниежүзілік мұхит

Жер бетінің 3/4 бөлігін алып жатыр

A) Түбектер
B) Көлдер
C) Дүниежүзілік мұхит
D) Материктер

Жауабы: C) Дүниежүзілік мұхит

13) Тақырыбы: Солтүстік Американың жер бедері

Солтүстік Американың жазықтары:

A) Орталық жазық, Ұлы жазық, Миссисипи

B) Амазонка, Колхида

C) Аляска, Калифорния, Лабрадор, Флорида

D) Үндіқытай, Арабия, Юкатан

Жауабы: A) Орталық жазық, Ұлы жазық, Миссисипи

14) Тақырыбы: Қазақстан өнеркәсібі (ағаш өңдеу)

Қазақстандағы негізгі ағаш өңдеу орталығы.

A) Шығыс Қазақстан

B) Орталық Қазақстан

C) Батыс Қазақстан

D) Солтүстік Қазақстан

Жауабы: A) Шығыс Қазақстан

15) Тақырыбы: Қазақстанның экономикалық-географиялық жағдайы

Қазақстан шекарасының жалпы ұзындығын табыңыз.

A) 14594 км

B) 2300 км

C) 3000 км

D) 12000 км

Жауабы: A) 14594 км

16) Тақырыбы: Дүниежүзінің табиғат зоналары (орман белдеулері)

Дүниежүзілік орманды белдеулердің саны.

A) 3

B) 5

C) 4

D) 2

Жауабы: D) 2

17) Тақырыбы: Дүниежүзінің табиғат зоналары (шөлдер)

Тынық мұхиты жағалауындағы шөл

A) Намиб
B) Атақама
C) Үлкен Құмды
D) Калахари

Жауабы: B) Атақама

18) Тақырыбы: Еуразияның жер бедері (таулы үстірттер)

Енисей және Лена өзендерінің аралығында орналасқан таулы үстірт

A) Орта Сібір
B) Шығыс Еуропа
C) Батыс Сібір
D) Иран

Жауабы: A) Орта Сібір

19) Тақырыбы: Ресейдің өнеркәсібі (машина жасау)

Ресейдің астық жинайтын комбайндар құрастыратын ауданы.

A) Новосибирск
B) Пермь
C) Солтүстік Кавказ
D) Уфа

Жауабы: C) Солтүстік Кавказ

20) Тақырыбы: Литосфера (тау жыныстары)

Алғашында шөгінді немесе магмалық тау жынысы түрінде пайда болғанымен, жер қойнауында қысым мен температураның әсерінен өзгеріске ұшыраған тау жыныстарын табыңыз.

A) Магмалық тау жыныстары
B) Шөгінді тау жыныстары
C) Органикалық тау жыныстары
D) Метаморфты тау жыныстары

Жауабы: D) Метаморфты тау жыныстары

21) Тақырыбы: Дүниежүзінің халық географиясы (байырғы халықтар)
Канаданың байырғы халықтары.

A) Папуас, пигмей
B) Эскимос, үндіс
C) Ацтек, майя
D) Абориген, маори

Жауабы: B) Эскимос, үндіс

22) Тақырыбы: Дүниежүзінің гидрографиясы (сарқырамалар)
Жер шарындағы ең биік сарқыраманы көрсетіңіз.

A) Ниагара
B) Анхель
C) Ливингстон
D) Виктория

Жауабы: B) Анхель

23) Тақырыбы: Картография (горизонтальдар)
Горизонталь -

A) Биіктіктері әртүрлі нүктелерді қосатын қисық сызықтар
B) Биіктіктері бірдей нүктелерді қосатын қисық сызықтар
C) Параллельдерге кесе-көлденең қойылған сызықтар
D) Меридиандарға кесе-көлденең қойылған сызықтар

Жауабы: B) Биіктіктері бірдей нүктелерді қосатын қисық сызықтар

24) Тақырыбы: Қазақстанның пайдалы қазбалары (темір кені)
Шөгінді жыныстардан пайда болған, ашық әдіспен өндірілетін темір кен орындарын табыңыз.

A) Әйет, Лисаков
B) Кентөбе, Текелі
C) Қаратас, Ащысай
D) Кемпірсай, Жезді

Жауабы: A) Әйет, Лисаков

25) Тақырыбы: Қазақстанның ерекше қорғалатын табиғи аумақтары

Қазақстанның ұлттық саябақтары

A) Ертіс орманы, Семей орманы, Шарын каньоны
B) Қаздың қайтуы, Шынтүрген, Шарын каньоны
C) Барсакелмес, Қаратау, Үстірт
D) Алтынемел, Көкшетау, Баянауыл

Жауабы: D) Алтынемел, Көкшетау, Баянауыл

26) Тақырыбы: Қазақстанның географиялық орны

Қазақстанның солтүстіктен оңтүстікке қарай, батыстан шығысқа қарай созылып жатқан қашықтығы

A) 2650 км
B) 1250 км
C) 1650 км
D) 2300 км
E) 3000 км
F) 3450 км

Жауабы: C) 1650 км, E) 3000 км

27) Тақырыбы: Қазақстанның жер бедері (Тянь-Шань таулары)

Батыс Тянь-Шаньға кіреді

A) Сарыжаз жотасы
B) Қаратау жотасы
C) Ишанбұлақ шыңы
D) Теріскей Алатауы
E) Мыңжылқы (Бессаз) тауы
F) Айтау

Жауабы: B) Қаратау жотасы, E) Мыңжылқы (Бессаз) тауы

28) Тақырыбы: АҚШ-тың географиясы (аумағы)

АҚШ-тың территориясына кіретін аймақ (-тар)

A) Флорида түбегі
B) Аляска түбегі

C) Лабрадор түбегі
D) Гавай аралдары
E) Баффин Жері аралы
F) Виктория аралы

Жауабы: A) Флорида түбегі, B) Аляска түбегі, D) Гавай аралдары

29) Тақырыбы: Қазақстанның әлеуметтік-экономикалық географиясы (денсаулық және өнеркәсіп)
Қазақстанда кәсіби аурушаңдықтың ең жоғары деңгейі

A) Маңғыстау облысы
B) Алматы қаласы
C) Павлодар облысы
D) Қарағанды облысы
E) Атырау облысы
F) Қостанай облысы

Жауабы: C) Павлодар облысы, D) Қарағанды облысы

30) Тақырыбы: Қазақстанның географиялық орны
Қазақстанмен шектесетін мемлекет(-тер)

A) Түркия
B) Жапония
C) Ресей
D) Үндістан
E) Қытай
F) Франция

Жауабы: C) Ресей, E) Қытай

31) Тақырыбы: Қазақстанның экономикалық географиясы

«Инвестициялық тартымдылық»

Инвестициялар – отандық экономиканың сапалы әрі тұрақты өсуінің нақты кепілі. Бүгінде еліміз Орталық Азия аймағындағы мемлекеттер арасында инвестициялық тартымдылығы жағынан көш басында келеді. Мәселен, былтырдың өзінде ғана шетелдік компаниялар мен қаржылық институттар Қазақстан экономикасына 23 млрд доллардан астам қаражат салған. Бұл көрсеткіш 2020 жылмен салыстырғанда 38 пайызға көп. Осы ретте атап өту керек, қазіргі күнде шетелдік инвестициялардың басым бөлігі отандық экономиканың шикізаттық емес секторына тиесілі.

Қазақстан инвестициялық тартымдылық өлшемі бойынша әлемдегі орны?

A) 89
B) 50
C) 25
D) 17

Жауабы: C) 25

32) Тақырыбы: Қазақстанның экономикалық географиясы

«Инвестициялық тартымдылық»

Инвестициялар – отандық экономиканың сапалы әрі тұрақты өсуінің нақты кепілі. Бүгінде еліміз Орталық Азия аймағындағы мемлекеттер арасында инвестициялық тартымдылығы жағынан көш басында келеді. Мәселен, былтырдың өзінде ғана шетелдік компаниялар мен қаржылық институттар Қазақстан экономикасына 23 млрд доллардан астам қаражат салған. Бұл көрсеткіш 2020 жылмен салыстырғанда 38 пайызға көп. Осы ретте атап өту керек, қазіргі күнде шетелдік инвестициялардың басым бөлігі отандық экономиканың шикізаттық емес секторына тиесілі.

Шетелдік инвесторлардың көп бағытталған секторы:

A) қаржы институттары
B) құрылыс секторы
C) сақтандыру қызметі
D) өндіруші сектор

Жауабы: D) өндіруші сектор

33) Тақырыбы: Қазақстанның экономикалық географиясы

«Инвестициялық тартымдылық»

Инвестициялар – отандық экономиканың сапалы әрі тұрақты өсуінің нақты кепілі. Бүгінде еліміз Орталық Азия аймағындағы мемлекеттер арасында инвестициялық тартымдылығы жағынан көш басында келеді. Мәселен, былтырдың өзінде ғана шетелдік компаниялар мен қаржылық институттар Қазақстан экономикасына 23 млрд доллардан астам қаражат салған. Бұл көрсеткіш 2020 жылмен салыстырғанда 38 пайызға көп. Осы ретте атап өту керек, қазіргі күнде шетелдік инвестициялардың басым бөлігі отандық экономиканың шикізаттық емес секторына тиесілі.

Қазақстан экономикасына 77,9 млрд доллар инвестиция салған ел:

A) Оңтүстік Корея
B) Нидерланд
C) Швейцария
D) АҚШ

Жауабы: B) Нидерланд

34) Тақырыбы: Қазақстанның экономикалық географиясы

«Инвестициялық тартымдылық»

Инвестициялар – отандық экономиканың сапалы әрі тұрақты өсуінің нақты кепілі. Бүгінде еліміз Орталық Азия аймағындағы мемлекеттер арасында инвестициялық тартымдылығы жағынан көш басында келеді. Мәселен, былтырдың өзінде ғана шетелдік компаниялар мен қаржылық институттар Қазақстан экономикасына 23 млрд доллардан астам қаражат салған. Бұл көрсеткіш 2020 жылмен салыстырғанда 38 пайызға көп. Осы ретте атап өту керек, қазіргі күнде шетелдік инвестициялардың басым бөлігі отандық экономиканың шикізаттық емес секторына тиесілі.

Қазақстан экономикасына жетекші инвесторлар

A) Нидерланд, АҚШ, Швейцария
B) Оңтүстік Корея, АҚШ, Германия
C) Оңтүстік Корея, Ресей, Испания
D) Нидерланд, АҚШ, Бельгия

Жауабы: A) Нидерланд, АҚШ, Швейцария

35) Тақырыбы: Қазақстанның экономикалық географиясы

«Инвестициялық тартымдылық»

Инвестициялар – отандық экономиканың сапалы әрі тұрақты өсуінің нақты кепілі. Бүгінде еліміз Орталық Азия аймағындағы мемлекеттер арасында инвестициялық тартымдылығы жағынан көш басында келеді. Мәселен, былтырдың өзінде ғана шетелдік компаниялар мен қаржылық институттар Қазақстан экономикасына 23 млрд доллардан астам қаражат салған. Бұл көрсеткіш 2020 жылмен салыстырғанда 38 пайызға көп. Осы ретте атап өту керек, қазіргі күнде шетелдік инвестициялардың басым бөлігі отандық экономиканың шикізаттық емес секторына тиесілі.

Инвестицияларды дамыту үшін қолайсыз фактор:

A) Дамыған инфрақұрылым
B) Инвестициялық тәуекелдер
C) Тұтынушылық әлеует
D) Саяси және әлеуметтік тұрақтылық

Жауабы: B) Инвестициялық тәуекелдер

3 НҰСҚА

1) Тақырыбы: География ғылымының дамуы (ғалымдар)

Эфиопия жері бағалы қатты бидайдың отаны екенін анықтаған орыс ғалымы

A) Н. Вавилов
B) А. Гумбольт
C) В. Юнкер
D) Д. Ливингстон

Жауабы: A) Н. Вавилов

2) Тақырыбы: Дүниежүзінің аймақтық географиясы (Мұхиттық аралдар)

Тарихи-географиялық ерекшеліктеріне қарай Мұхиттық аралдардың бөлінуін анықтаңыз.

A) 2
B) 5
C) 4
D) 3

Жауабы: D) 3

3) Тақырыбы: Дүниежүзінің саяси картасы (Еуропа елдері)

1-саны мен берілген мемлекет

A) Нидерланды
B) Германия

C) Дания
D) Бельгия

Жауабы: C) Дания

4) Тақырыбы: Африканың жер бедері
Африкадағы таулы қыратты табыңыз.

A) Айдahap
B) Дарфур
C) Аир
D) Тибести

Жауабы: D) Тибести

5) Тақырыбы: Халық географиясы (демографиялық ұғымдар)
Ұрпақтың үздіксіз ауысып отыру процесі

A) Диаспора
B) Ұдайы өсуі
C) Демография
D) Эмиграция

Жауабы: B) Ұдайы өсуі

6) Тақырыбы: Физикалық география (жер бедері ұғымдары)
Құрлықтың мұхитқа немесе теңізге ішкерілей еніп жатқан бөлігін табыңыз.

A) Түбек
B) Теңіз
C) Арал
D) Бұғаз

Жауабы: A) Түбек

7) Тақырыбы: Қазақстанның экономикалық-географиялық жағдайы
Қазақстан мен Қырғызстан арасындағы шекараның ұзындығы.

A) 380 км
B) 1460 км

C) 2300 км
D) 1241 км

Жауабы: D) 1241 км

8) Тақырыбы: Дүниежүзінің табиғат зоналары (шөлдер)
Тынық мұхиты жағалауындағы шөлді табыңыз.

A) Атакама
B) Намиб
C) Гоби
D) Калахари

Жауабы: A) Атакама

9) Тақырыбы: Қазақстанның жер бедері (жазықтар мен ойпаттар)
Батыс Сібір жазығын Тұран ойпатымен ... жалғастырады.

A) Жем үстірті
B) Торғай қолаты
C) Бетпақдала үстірті
D) Орал алды үстірті

Жауабы: B) Торғай қолаты

10) Тақырыбы: Қазақстанның ішкі сулары (өзендер)
Каспий теңізі алабының басты өзенін анықтаңыз.

A) Жайық
B) Шу
C) Ертіс
D) Сырдария

Жауабы: A) Жайық

11) Тақырыбы: Қазақстанның көлік географиясы (әуе көлігі)
Қазақстандағы әуе көлігі инфрақұрылымының кемшілігі

A) Тек бір ғана әуе компаниясының болуы
B) Қымбат көлік түрі

C) Әуежайлар санының аздығы
D) Әуежайлардың халық санына шаққанда өте көп болу

Жауабы: C) Әуежайлар санының аздығы

12) Тақырыбы: Африканың пайдалы қазбалары (мұнай-газ)
Африканың газға бай елдері.

A) Алжир, Ливия, Марокко
B) Гвинея, Либерия, Сенегал
C) Алжир, Ливия
D) Мали, Чад, Нигер

Жауабы: C) Алжир, Ливия

13) Тақырыбы: Қазақстанның ерекше қорғалатын табиғи аумақтары
Тянь-Шань тауындағы қорықтар.

A) Қорғалжын, Зеренді
B) Ақсу-Жабағылы, Алматы
C) Барсакелмес, Үстірт
D) Батыс Алтай, Марқакөл

Жауабы: B) Ақсу-Жабағылы, Алматы

14) Тақырыбы: География ғылымының салалары
Жер бедерін зерттейтін ғылым.

A) Геология
B) Геоморфология
C) Тектоника
D) Петрография

Жауабы: B) Геоморфология

15) Тақырыбы: Қазақстанның пайдалы қазбалары (сирек металдар)
Сирек кездесетін металдардың кен орындарының шоғырлануы жөнінен алдыңғы орындағы ауданды табыңыз.

A) Батыс Қазақстан
B) Алтай

C) Солтүстік Қазақстан
D) Орталық Қазақстан

Жауабы: D) Орталық Қазақстан

16) Тақырыбы: АҚШ-тың экономикалық аудандары
Аляска мен Гавай штаттары кіретін АҚШ-тың экономикалық ауданы

A) Солтүстік
B) Оңтүстік
C) Батыс
D) Солтүстік-Шығыс

Жауабы: C) Батыс

17) Тақырыбы: Литосфера (литосфералық тақталар және таулар)
Африка және Еуразия литосфералық тақталарының тоғысқан жерінде пайда болған тауды көрсетіңіз.

A) Атлас тауы
B) Эфиопия таулы қыраты
C) Кап тауы
D) Тибести таулы қыраты

Жауабы: A) Атлас тауы

18) Тақырыбы: Дүниежүзілік шаруашылық (ҒТР)
ҒТР-дың құрамдас бөліктері.

A) 2
B) 3
C) 5
D) 4

Жауабы: D) 4

19) Тақырыбы: Жер бедері (жазықтардың пайда болуы)
Бұрын теңіз түбі болып, кейін көтерілудің нәтижесінде пайда болған жазық

A) Декан үстірті
B) Каспий маңы ойпаты

C) Орта Сібір таулы үстірті
D) Ұлы Қытай жазығы

Жауабы: B) Каспий маңы ойпаты

20) Тақырыбы: Қазақстанның пайдалы қазбалары (көмір алаптары)
Қазақстандағы ірі көмір алаптарын көрсетіңіз.

A) Приозерный, Майқайың
B) Қарағанды, Екібастұз
C) Қаражыра, Кендірлік
D) Торғай, Арқалық

Жауабы: B) Қарағанды, Екібастұз

21) Тақырыбы: Антарктиданың географиясы
Антарктиданың орташа биіктігін табыңыз.

A) 1500 м
B) 815 м
C) 215 м
D) 2040 м

Жауабы: D) 2040 м

22) Тақырыбы: Қазақстанның ауыл шаруашылығы
Суармалы егіншілікті аудан:

A) Оңтүстік
B) Солтүстік
C) Орталық
D) Шығыс

Жауабы: A) Оңтүстік

23) Тақырыбы: Қазақстанның табиғат зоналары (өсімдік және топырақ)
Дермене жусаны өсетін табиғат зонасының топырағы

A) Сүр қоңыр, қоңыр
B) Қара, қара-қоңыр

C) Қызыл қоңыр
D) Қара, сұр қоңыр

Жауабы: A) Сүр қоңыр, қоңыр

24) Тақырыбы: Қазақстан өнеркәсібі (химия өнеркәсібі)
Азот тыңайтқыштарын өндіретін өндіріс орны бар қала

A) Шымкент
B) Ақтау
C) Өскемен
D) Ақтөбе

Жауабы: B) Ақтау

25) Тақырыбы: Дүниежүзінің ауыл шаруашылығы (Бразилия)
Бразилиядағы негізгі ауылшаруашылық дақылы.

A) Күнбағыс
B) Кофе
C) Батат
D) Тары

Жауабы: B) Кофе

26) Тақырыбы: Метеорология (аспаптар)
Салыстырмалы ылғалдылықты өлшейтін құрал

A) Шаш гигрометрі
B) Анемометр
C) Тұсбағар
D) Сырық
E) Анероид барометрі
F) Альтиметр

Жауабы: A) Шаш гигрометрі

27) Тақырыбы: Қазақстанның экологиялық мәселелері
Қазақстанға тән экологиялық мәселе (-лер)

A) Судың ластануы
B) Топырақтың құнарсыздануы
C) Тірі ағзалардың азаюы
D) Ормандардың азаюы
E) Ауаның ластануы
F) Шөлейттену

Жауабы: A) Судың ластануы, E) Ауаның ластануы, F) Шөлейттену

28) Тақырыбы: Қазақстанның физикалық географиясы (жер бедері)
Дұрыс сипаттама

A) Солтүстікте Сарыарқа, оңтүстікте Тянь-Шань тауы
B) Солтүстікте Батыс Сібір жазығы, оңтүстікте Тянь-Шань тауы
C) Батыста Каспий маңы ойпаты, шығыста Алтай тауы
D) Шығыста Каспий маңы ойпаты, батыста Алтай тауы
E) Солтүстікте Батыс Сібір жазығы, оңтүстікте Қызылқұм
F) Шығыста Сауыр тауы, батыста Мұғалжар тауы

Жауабы: B) Солтүстікте Батыс Сібір жазығы, оңтүстікте Тянь-Шань тауы, C) Батыста Каспий маңы ойпаты, шығыста Алтай тауы, E) Солтүстікте Батыс Сібір жазығы, оңтүстікте Қызылқұм

29) Тақырыбы: Антарктиданың географиясы (ерекшеліктері)
Антарктиданың басқа материктерден айырмашылығы (-тары)

A) Антарктида қойнауында кен байлықтары көп
B) Материкте жанартаулар бар
C) Антарктида түгелдей оңтүстік жартышарда орналасқан
D) Арктика ауданына қарама-қарсы орналасқан
E) Материктің мұз жамылғысы бар
F) Бұл материкте пингвинның көп түрі бар

Жауабы: D) Арктика ауданына қарама-қарсы орналасқан, E) Материктің мұз жамылғысы бар, F) Бұл материкте пингвинның көп түрі бар

30) Тақырыбы: Қазақстанның ауыл шаруашылығы (агроөнеркәсіптік кешен)
Агроөнеркәсіптік кешен жақсы дамыған облыстар

A) Ақмола, Оңтүстік Қазақстан
B) Алматы, Шығыс Қазақстан
C) Қарағанды, Шығыс Қазақстан
D) Алматы, Қарағанды
E) Көкшетау, Оңтүстік Қазақстан
F) Оңтүстік Қазақстан, Солтүстік Қазақстан

Жауабы: A) Ақмола, Оңтүстік Қазақстан, B) Алматы, Шығыс Қазақстан, F) Оңтүстік Қазақстан, Солтүстік Қазақстан

31) Тақырыбы: Каспий теңізі (географиясы)

Каспий теңізі – Европа мен Азия аралығында орналасқан жер шарындағы ең үлкен тұйық көл. Үлкендігіне қарап, оны теңіз деп атайды. Каспий теңізінің жалпы ауданы 376 мың км². Теңіз суы бірнеше мемлекеттін жағалауын шайып жатыр. Каспий теңізіне 130-ға жуық өзендер мен ағынды сулар құяды. Теңізге құятын өзендер мен қоректік заттың мол тасымалдануына байланысты, Каспий теңізі балыққа бай. Қазақстанның Каспий теңізінде көршілес Ресей және Азербайжанның теңіз порттарына жүк тасып жүрген заманауи «Астана», «Алматы», «Абай», «Алатау» деген танкерлеріміз бар.

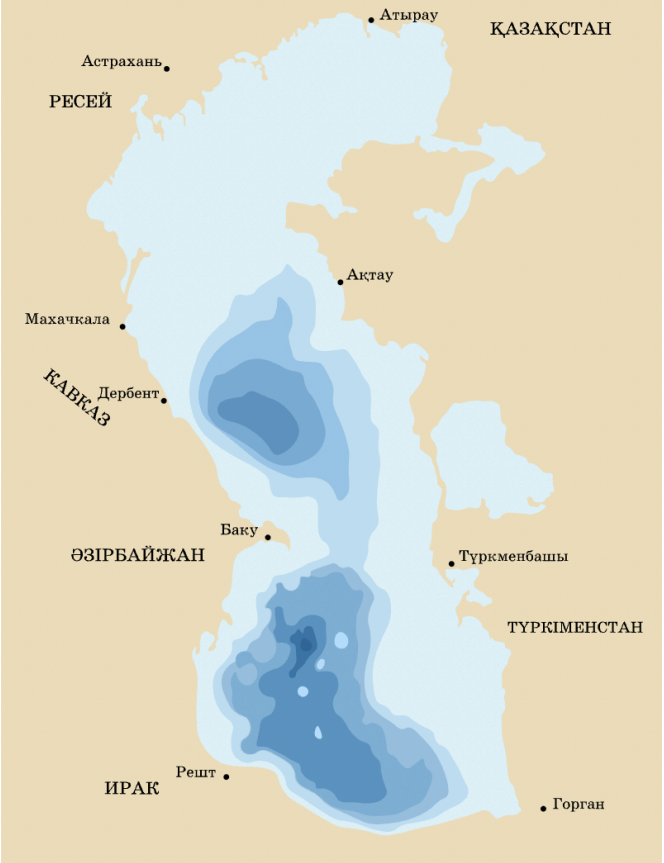

Каспий теңізінің жағалау сызығының ең үлкен шекарасы орналасқан ел

A) Әзірбайжан

B) Түркіменстан

C) Қазақстан

D) Иран

Жауабы: C) Қазақстан

32) Тақырыбы: Каспий теңізі (географиясы)

Каспий теңізі – Европа мен Азия аралығында орналасқан жер шарындағы ең үлкен тұйық көл. Үлкендігіне қарап, оны теңіз деп атайды. Каспий теңізінің жалпы ауданы 376 мың км². Теңіз суы бірнеше мемлекеттін жағалауын шайып жатыр. Каспий теңізіне 130-ға жуық өзендер мен ағынды сулар құяды. Теңізге құятын өзендер мен қоректік заттың мол тасымалдануына байланысты, Каспий теңізі балыққа бай. Қазақстанның Каспий теңізінде көршілес Ресей және Азербайжанның теңіз порттарына жүк тасып жүрген заманауи «Астана», «Алматы», «Абай», «Алатау» деген танкерлеріміз бар.

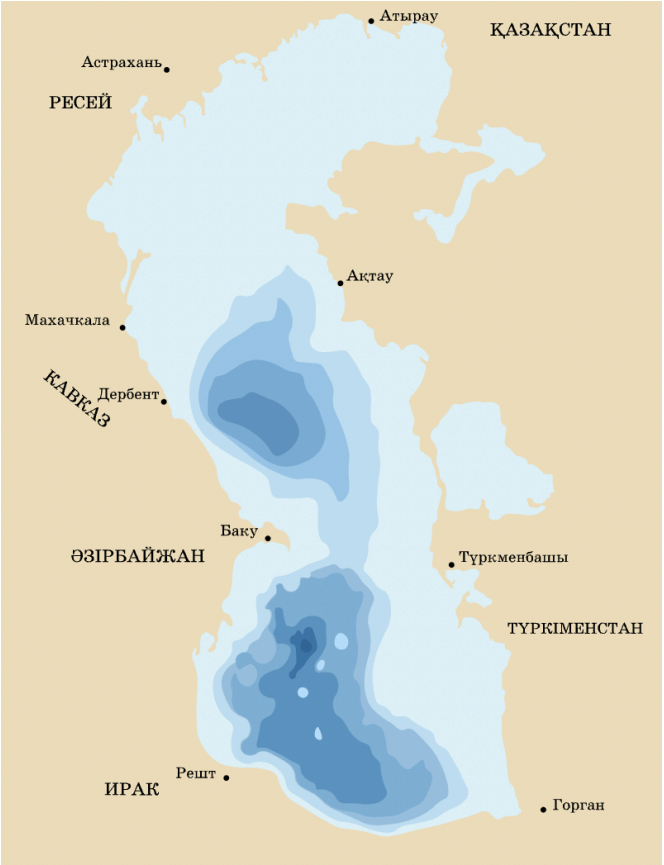

Каспий теңізі жағалауын шайып жататын мемлекеттер

A) Түркіменстан, Ирак, Әзірбайжан
B) Қазақстан, Ресей, Түркіменстан
C) Түркіменстан, Қырғызстан, Ресей
D) Қырғызстан, Иран, Өзбекстан

Жауабы: B) Қазақстан, Ресей, Түркіменстан

33) Тақырыбы: Каспий теңізі (географиясы)

Каспий теңізі – Европа мен Азия аралығында орналасқан жер шарындағы ең үлкен тұйық көл. Үлкендігіне қарап, оны теңіз деп атайды. Каспий теңізінің жалпы ауданы 376 мың км². Теңіз суы бірнеше мемлекеттін жағалауын шайып жатыр. Каспий теңізіне 130-ға жуық өзендер мен ағынды сулар құяды. Теңізге құятын өзендер мен қоректік заттың мол тасымалдануына байланысты, Каспий теңізі балыққа бай. Қазақстанның Каспий теңізінде көршілес Ресей және Азербайжанның теңіз порттарына жүк тасып жүрген заманауи «Астана», «Алматы», «Абай», «Алатау» деген танкерлеріміз бар.

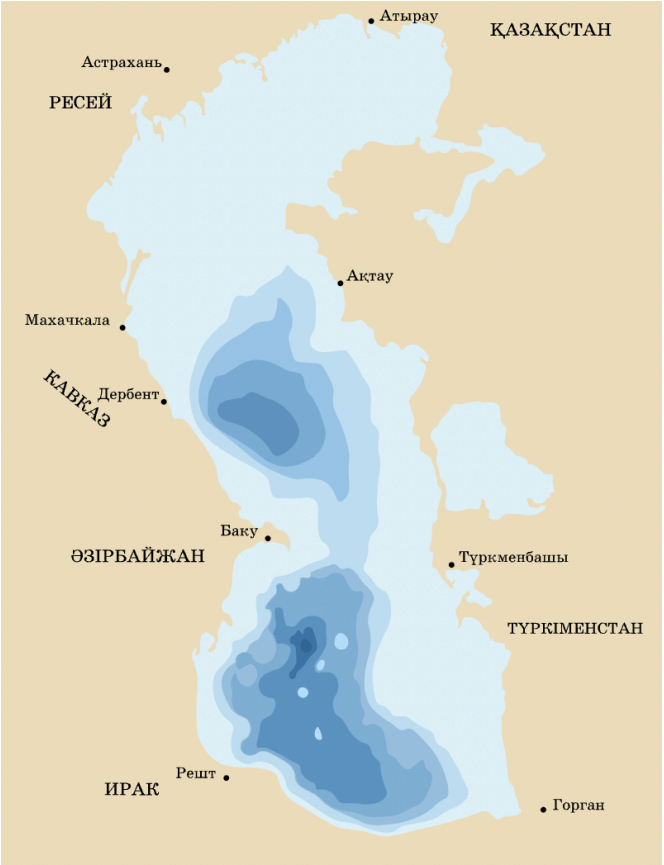

Каспий теңізі мен Маңғыстау үстірті аралығында орналасқан түбек

A) Үстірт
B) Маңғыстау
C) Каспий маңы
D) Торғай

Жауабы: B) Маңғыстау

34) Тақырыбы: Каспий теңізі (географиясы)

Каспий теңізі – Европа мен Азия аралығында орналасқан жер шарындағы ең үлкен тұйық көл. Үлкендігіне қарап, оны теңіз деп атайды. Каспий теңізінің жалпы ауданы 376 мың км². Теңіз суы бірнеше мемлекеттін жағалауын шайып жатыр. Каспий теңізіне 130-ға жуық өзендер мен ағынды сулар құяды. Теңізге құятын өзендер мен қоректік заттың мол тасымалдануына байланысты, Каспий теңізі балыққа бай. Қазақстанның Каспий теңізінде көршілес Ресей және Азербайжанның теңіз порттарына жүк тасып жүрген заманауи «Астана», «Алматы», «Абай», «Алатау» деген танкерлеріміз бар.

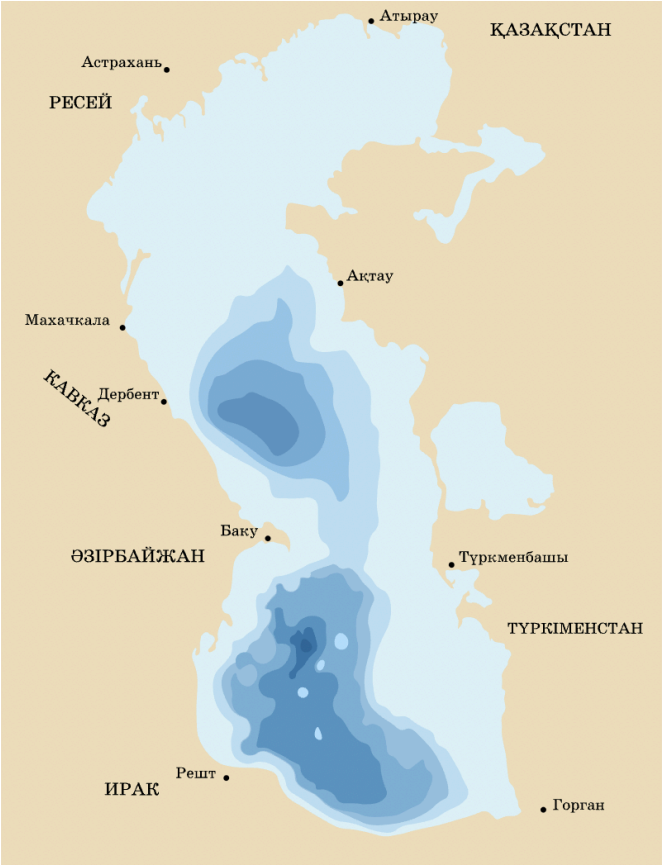

Қазақстанмен теңіз тасымалы бар ел

A) Қытай
B) Ресей
C) Өзбекстан
D) Қырғызстан

Жауабы: B) Ресей

35) Тақырыбы: Каспий теңізі (географиясы)

Каспий теңізі – Европа мен Азия аралығында орналасқан жер шарындағы ең үлкен тұйық көл. Үлкендігіне қарап, оны теңіз деп атайды. Каспий теңізінің жалпы ауданы 376

мың км². Теңіз суы бірнеше мемлекеттін жағалауын шайып жатыр. Каспий теңізіне 130-ға жуық өзендер мен ағынды сулар құяды. Теңізге құятын өзендер мен қоректік заттың мол тасымалдануына байланысты, Каспий теңізі балыққа бай. Қазақстанның Каспий теңізінде көршілес Ресей және Азербайжанның теңіз порттарына жүк тасып жүрген заманауи «Астана», «Алматы», «Абай», «Алатау» деген танкерлеріміз бар.

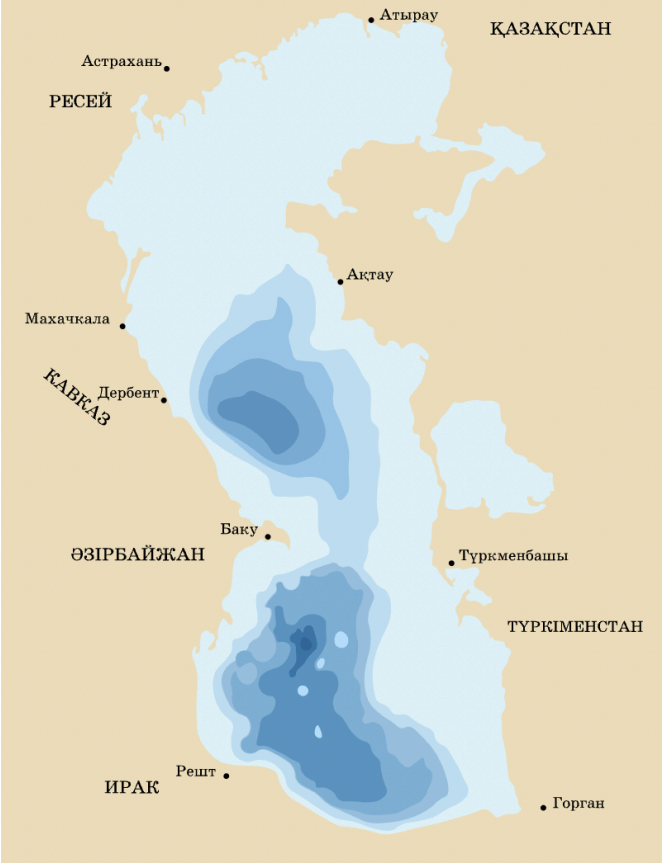

Каспий теңізіне құятын өзендер

A) Индер, Қарасор
B) Шелек, Шалқар
C) Жайық, Жем
D) Нұра, Ырғыз

Жауабы: C) Жайық, Жем

4 НҰСҚА

1) Тақырыбы: АҚШ-тың экономикалық географиясы (ішкі сулар)

АҚШ-тың "үшінші теңіз жағалауы"

A) Колумбия
B) Колорадо
C) Әулие Лаврентий
D) Ұлы көлдер

Жауабы: D) Ұлы көлдер

2) Тақырыбы: Қазақстанның жер бедері (жазықтар)
Қазақстанның оңтүстігіндегі жазықты табыңыз.

A) Солтүстік Қазақ жазығы
B) Шығыс Еуропа жазығы
C) Тұран жазығы
D) Каспий маңы ойпаты

Жауабы: C) Тұран жазығы

3) Тақырыбы: Африканың пайдалы қазбалары (мұнай)
Африканың мұнайға бай аймағын табыңыз.

A) Шығыс Африка
B) Сахараның оңтүстігі
C) Гвинея шығанағы
D) Оңтүстік Африка

Жауабы: C) Гвинея шығанағы

4) Тақырыбы: Қазақстан өнеркәсібі (тамақ өнеркәсібі)
Маргарин, ашытқы, шай фабрикалары орналасқан қала.

A) Талдықорған
B) Алматы
C) Тараз
D) Астана

Жауабы: B) Алматы

5) Тақырыбы: Дүниежүзілік мұхит (тасу-қайту құбылысы)
Айдың тарту күші әсерінен пайда болатын ең биік толқын байқалатын шығанақ

A) Пенжин
B) Бискай
C) Бенгал
D) Фанди

Жауабы: D) Фанди

6) Тақырыбы: География ғылымының дамуы (саяхатшылар)
Өмірінің басым бөлігін Африканың ішкі аудандарын зерттеуге арнаған ағылшын саяхатшысын көрсетіңіз.

A) Д. Кук
B) Ф. Магеллан
C) В. Юнкер
D) Д. Ливингстон

Жауабы: D) Д. Ливингстон

7) Тақырыбы: Қазақстан өнеркәсібі (жеңіл өнеркәсіп)
Жібек маталар комбинаты жұмыс істейтін қаланы табыңыз.

A) Қостанай
B) Павлодар
C) Петропавл
D) Өскемен

Жауабы: D) Өскемен

8) Тақырыбы: Картография (масштаб)
Масштабы 1:100000 картаның атаулық масштабы

A) 1 см - 100 км
B) 1 см - 1 м
C) 1 см - 10 км
D) 1 см - 1 км

Жауабы: D) 1 см - 1 км

9) Тақырыбы: Қазақстанның ішкі сулары (өзендер)
Қазақстандағы ұзындығы 1000 км-ден асатын өзендер санын көрсетіңіз.

A) 15
B) 7
C) 12
D) 10

Жауабы: B) 7

10) Тақырыбы: Табиғи ресурстар (жіктелуі)
Сарқылатын, қалпына келмейтін ресурстарды табыңыз.

A) Су ресурстары
B) Климаттық ресурстар
C) Биологиялық ресурстар
D) Минералды ресурстар

Жауабы: D) Минералды ресурстар

11) Тақырыбы: Қазақстан өнеркәсібі (ағаш өңдеу)
Ағаш өңдеу өнеркәсібі орналасқан облыс

A) Қызылорда
B) Қарағанды
C) Шығыс Қазақстан
D) Батыс Қазақстан

Жауабы: C) Шығыс Қазақстан

12) Тақырыбы: Дүниежүзінің саяси картасы (Еуропа)
Апеннин түбегінде орналасқан мемлекет

A) Италия
B) Испания
C) Франция
D) Исландия

Жауабы: A) Италия

13) Тақырыбы: Уақыт белдеулері (география)
Ұшақ Астана қаласынан Лондон қаласына Астана уақытымен сағат 14:00-де ұшып шығады.
Ұшақтың ұшу уақыты 6 сағат болса, Лондон қаласына ұшып келетін уақыты

A) 12:00
B) 01:00
C) 02:00
D) 21:00

Жауабы: B) 01:00

14) Тақырыбы: Қазақстанның қорықтары (Шығыс Қазақстан)
Күршім жотасы мен оңтүстігінде теңіз деңгейінен 1447 м биіктіктегі Азутау жотасы аралығындағы қорық.

A) Үстірт
B) Алматы
C) Барсакелмес
D) Марқакөл

Жауабы: D) Марқакөл

15) Тақырыбы: Дүниежүзілік шаруашылық (қалыптасуы)
Дүниежүзілік шаруашылықтың қалыптасқан уақыты.

A) XX ғ. басында
B) XIX ғ. соңы мен XX ғ. басы
C) XIX ғ. ортасы
D) XIX ғ. басы мен ортасы

Жауабы: B) XIX ғ. соңы мен XX ғ. басы

16) Тақырыбы: Солтүстік Американың жер бедері
Солтүстік Американың жер бедерінде басым нысандар

A) Ойпаттар
B) Шөлдер
C) Таулар
D) Жазықтар

Жауабы: D) Жазықтар

17) Тақырыбы: Дүниежүзілік энергетика (СЭС)
СЭС-тан өндірілетін энергияның жан басына шаққандағы көрсеткіші жөнінен көшбасшы ел

A) Аустралия
B) Германия
C) Канада
D) Норвегия

Жауабы: D) Норвегия

18) Тақырыбы: Дүниежүзінің халық географиясы (нәсілдер)
Еуропалық нәсіл өкілдерінің белгілерін табыңыз.

A) Орыстар, якуттар
B) Арабтар, эфиоптар
C) Орыстар, немістер
D) Бурлар, малагасийлер

Жауабы: C) Орыстар, немістер

19) Тақырыбы: Дүниежүзінің халық географиясы (діндер)
Ең көп таралған әлемдік дін.

A) Буддизм
B) Христиан
C) Ислам
D) Конфуций

Жауабы: B) Христиан

20) Тақырыбы: Халық географиясы (демографиялық ұғымдар)
Халық санының күрт өсуі.

A) Демографиялық саясат
B) Демографиялық жарылыс
C) Демографиялық белсенділік
D) Демографиялық құлдырау

Жауабы: B) Демографиялық жарылыс

21) Тақырыбы: Климаттық белдеулер
Жер бетінде ең жоғары температура байқалатын климат белдеуі.

A) Экваторлық
B) Арктикалық
C) Тропиктік
D) Қоңыржай

Жауабы: C) Тропиктік

22) Тақырыбы: Саяси география (саяси ұғымдар)
Елдердің әскери қуатын арттыруға бағытталған жүйе

A) Фашизм
B) Геноцид
C) Милитаризм
D) Апартеид

Жауабы: C) Милитаризм

23) Тақырыбы: Антарктида материгі (климат)
Антарктида материгін сипаттайтын мәліметтер

1. Жазда температура 0°C, +4°C-қа дейін ғана көтеріледі
2. Ең төменгі температура −89,2°C тіркелген
3. Жауын-шашын мөлшері жыл бойы 1000 мм-ден артық
4. Жаз кезінде орташа температура −30° – −50°C
5. Жер шарындағы ең суық материк

A) 3, 4, 5
B) 1, 3, 4
C) 2, 4, 5
D) 2, 3, 4

Жауабы: C) 2, 4, 5

24) Тақырыбы: Дүниежүзінің физикалық географиясы (ең төмен нүкте)
Дүниежүзіндегі теңіз деңгейінен ең төмен орналасқан нүкте.

A) Өлі теңіз
B) Турфан
C) Қарақия ойысы
D) Ассаль көлі

Жауабы: A) Өлі теңіз

25) Тақырыбы: Африканың ішкі сулары (көлдер)

Жыл мезгілдеріне қарай аумағы өзгеріп отыратын Африкадағы ең таяз көл.

A) Чад
B) Виктория
C) Танганька
D) Ньяса

Жауабы: A) Чад

26) Тақырыбы: Дүниежүзілік шаруашылық (елдердің даму деңгейі)

Дамушы елдердің көшбасшыларын атаңыз

A) Пәкістан
B) Қытай
C) Бразилия
D) Канада
E) Ресей
F) АҚШ

Жауабы: B) Қытай, C) Бразилия, E) Ресей

27) Тақырыбы: Қазақстан өнеркәсібі (машина жасау)

Машина жасау өндірістері дамыған облыстар

A) Қарағанды
B) Ақтөбе
C) Манғыстау
D) Жамбыл
E) Алматы
F) Қызылорда

Жауабы: A) Қарағанды, B) Ақтөбе, E) Алматы

28) Тақырыбы: ТМД елдерінің табиғат ресурстары

ТМД елдерінің табиғат ресурстары

A) Қырғызстан – су энергия қуаты, жер
B) Беларусь – орман, су

C) Ресей – орман, топырақ
D) Әзірбайжан – мұнай, рекреация
E) Өзбекстан – топырақ, алтын
F) Қазақстан – жер, су

Жауабы: B) Беларусь – орман, су
C) Ресей – орман, топырақ
D) Әзірбайжан – мұнай, рекреация

29) Тақырыбы: Қазақстанның экономикалық географиясы (өнеркәсіпке әсер ететін факторлар)
Шаруашылық салаларын орналастыруға ықпал ететін заманауи фактор (-лар)

A) Экологиялық
B) Экономикалық-географиялық жағдай
C) Тұтынушы
D) Еңбек ресурстары
E) Көлік
F) Аумақтық шоғырлану

Жауабы: A) Экологиялық

30) Тақырыбы: Дүниежүзінің табиғат зоналары (жануарлар географиясы)
Материктер мен жануарлардың дұрыс сәйкестігі (-тері)

A) Еуразия – жолбарыс
B) Еуразия – арыстан
C) Аустралия – пингвин
D) Африка – марабу
E) Оңтүстік Америка – кондор
F) Африка – кенгуру

Жауабы: A) Еуразия – жолбарыс
D) Африка – марабу
E) Оңтүстік Америка – кондор

31) Тақырыбы: Дүниежүзінің табиғат зоналары

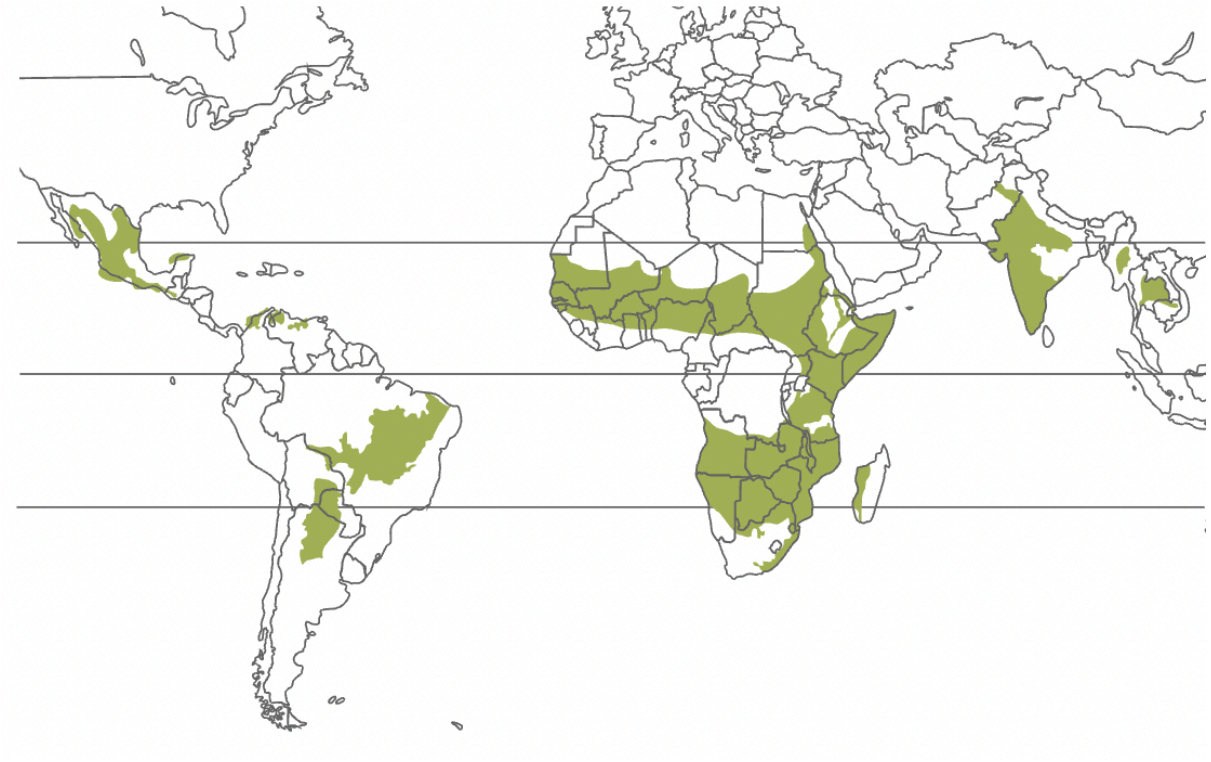

Бразилия жеріндегі бұл табиғат зонасының атауы

A) Льянос
B) Ломас
C) Кампос
D) Сельвас

Жауабы: C) Кампос

32) Тақырыбы: Дүниежүзінің табиғат зоналары

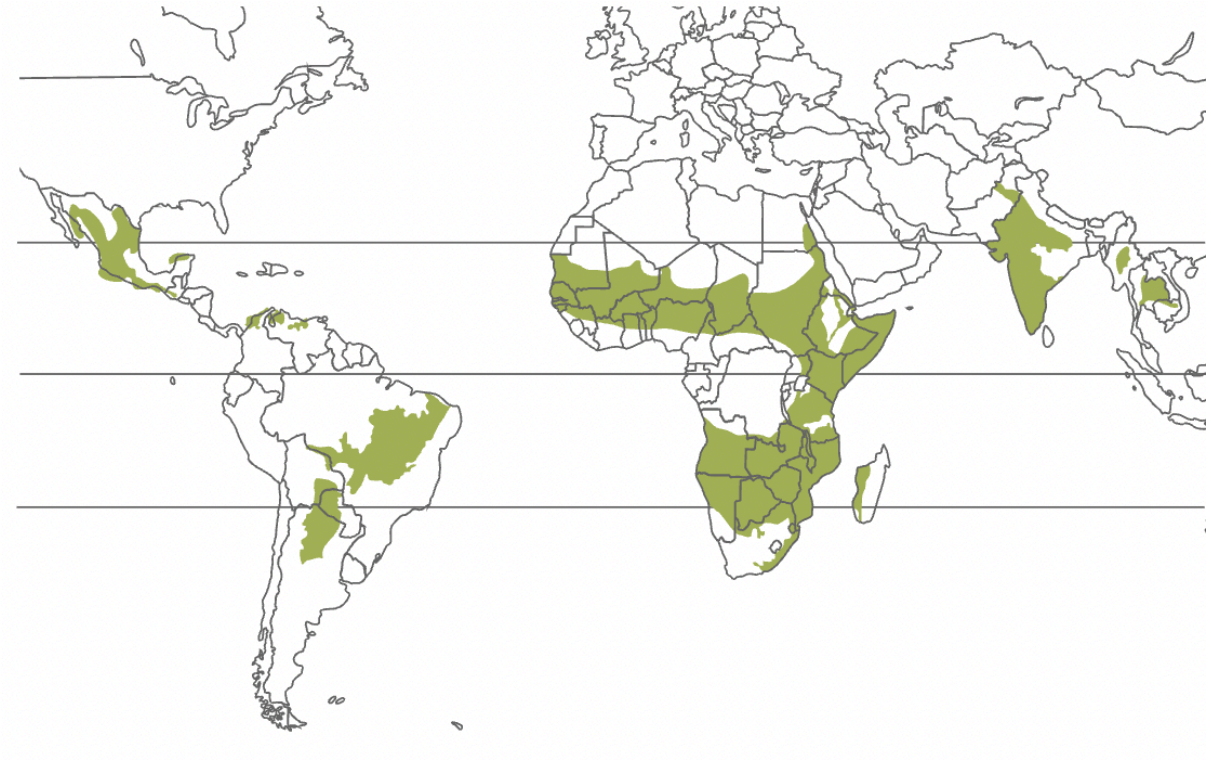

Ерекше түспен берілген табиғат зонасының Еуразия материгінде орналасқан аумағы

A) Арабия түбегі

B) Каспий маңы ойпаты

C) Үндістан мен Үндіқытай түбегі

D) Такла-Макан шөлі

Жауабы: C) Үндістан мен Үндіқытай түбегі

33) Тақырыбы: Дүниежүзінің табиғат зоналары

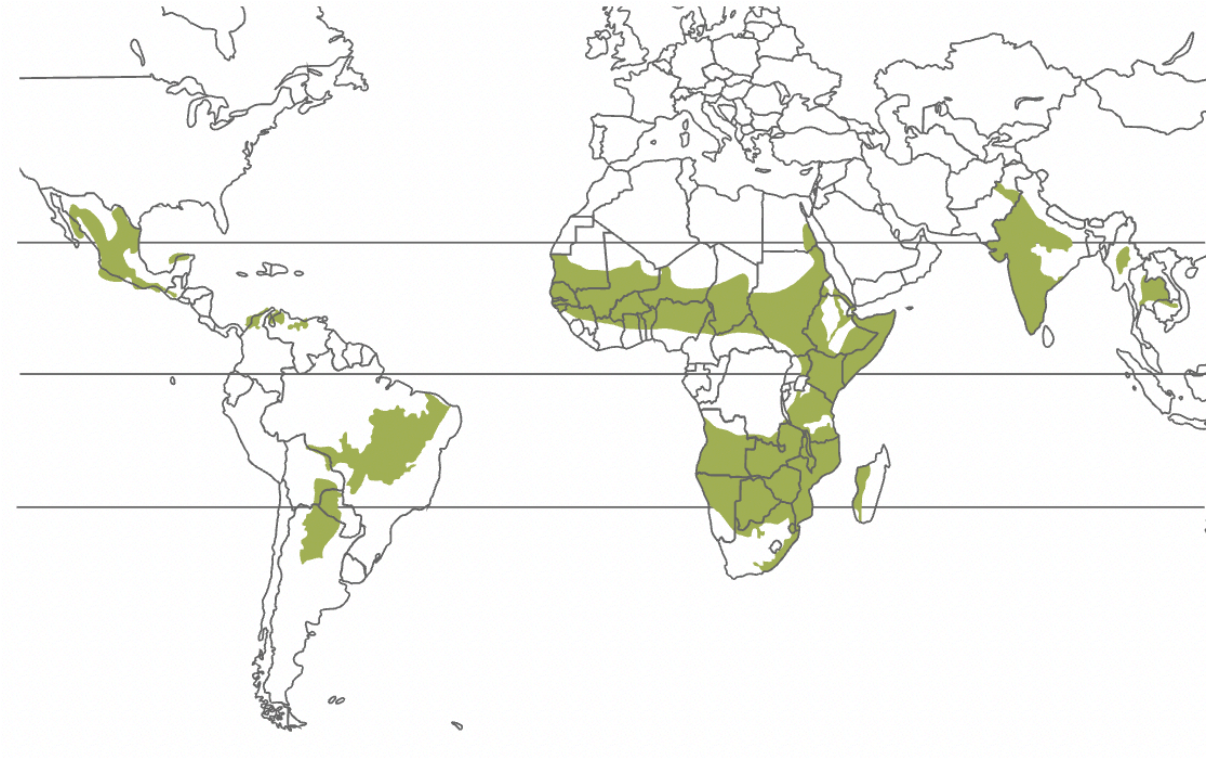

Ерекше түспен берілген табиғат зонасының Африка материгі аумағындағы үлесі

A) 40%

B) 20%

C) 10%

D) 30%

Жауабы: A) 40%

34) Тақырыбы: Дүниежүзінің табиғат зоналары

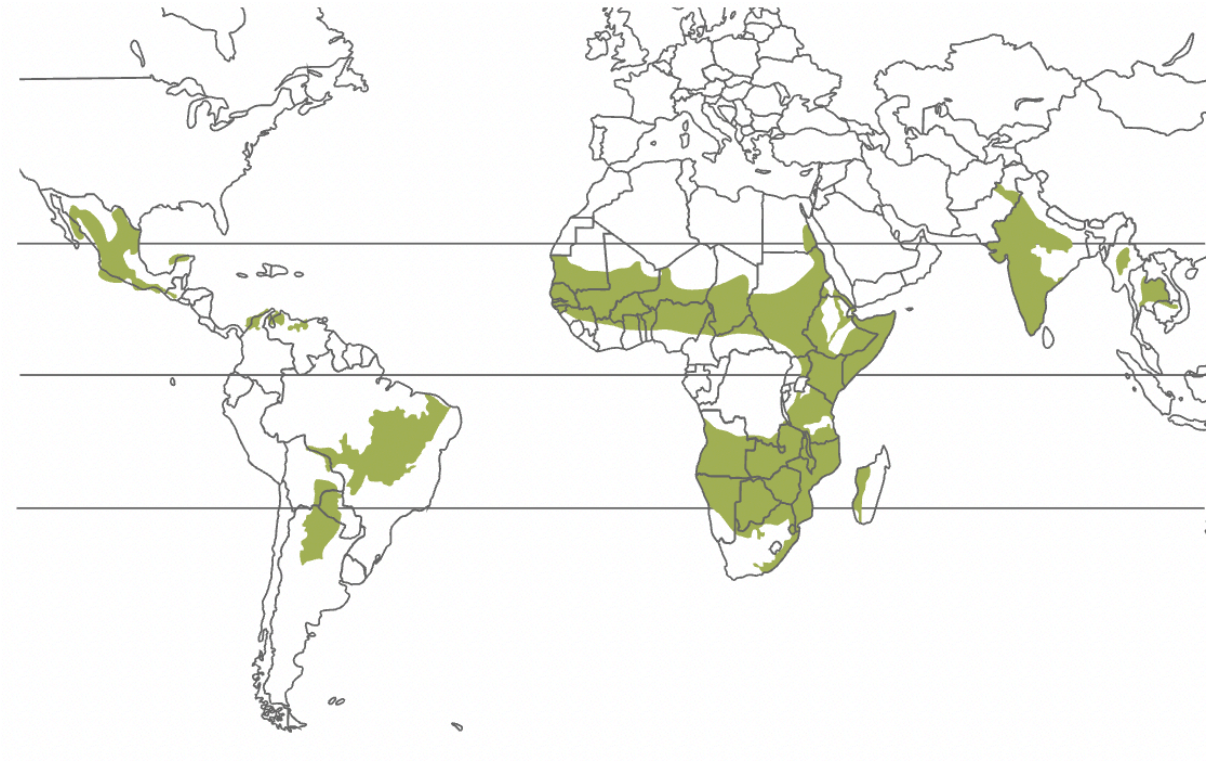

Ерекше түспен берілген табиғат зонасы

A) Саванна мен сирек ормандар

B) Тайга

C) Ылғалды экваторлық ормандар

D) Шөл

Жауабы: A) Саванна мен сирек ормандар

35) Тақырыбы: Дүниежүзінің табиғат зоналары

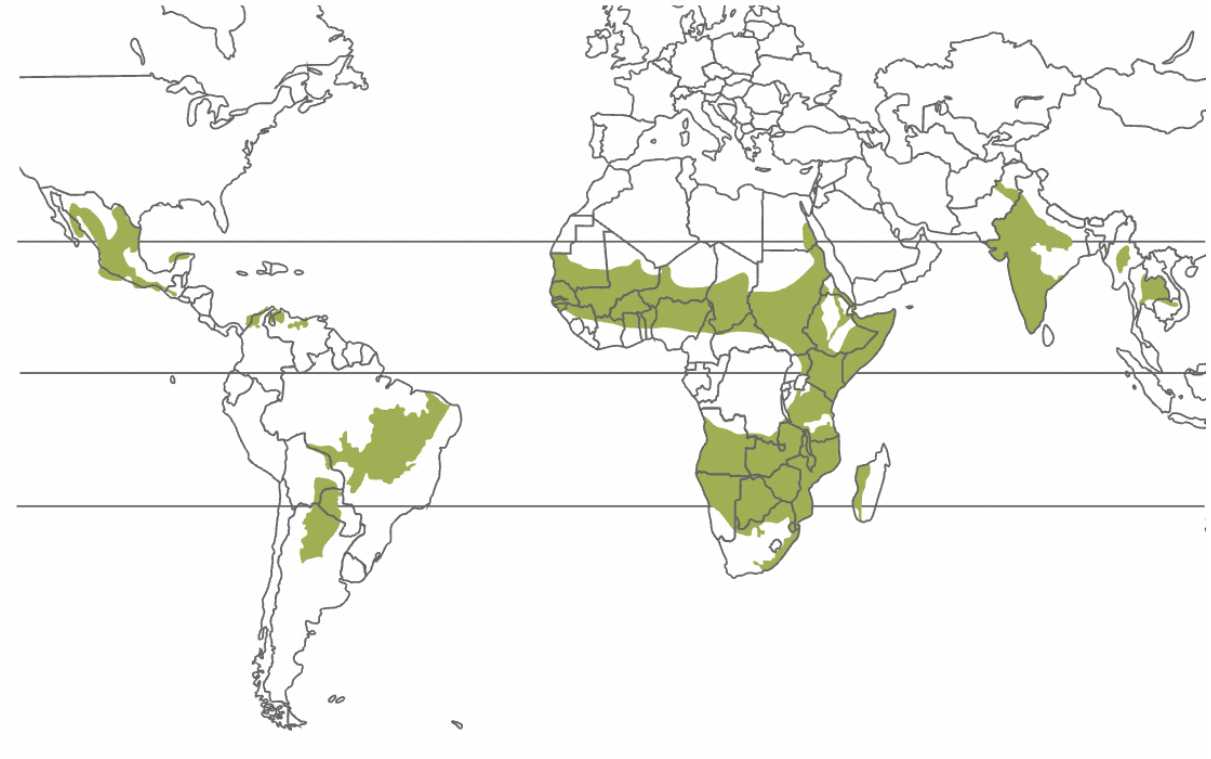

Ориноко жеріндегі бұл табиғат зонасының атауы

A) Сельвас

B) Ломас

C) Кампос

D) Льянос

Жауабы: D) Льянос

5 НҰСҚА

1) Тақырыбы: Қазақстанның физикалық географиясы (Каспий маңы ойпаты)

Каспий маңы ойпаты кіретін жазықты табыңыз.

A) Тұран
B) Торғай
C) Батыс Сібір
D) Шығыс Еуропа

Жауабы: D) Шығыс Еуропа

2) Тақырыбы: Африканың саяси географиясы (Солтүстік Африка елдері)

Солтүстік Африка елдерін анықтаңыз.

A) Ливия, Марокко
B) Египет, Чад
C) Марокко, Ангола
D) Тунис, Мали

Жауабы: A) Ливия, Марокко

3) Тақырыбы: Жер қыртысы және мантия (геотермиялық параметрлер)

Ғалымдардың болжамы бойынша мантияның төменгі шекарасындағы температура:

A) 3800°C
B) 2200°C
C) 5200°C
D) 3000°C

Жауабы: A) 3800°C

4) Тақырыбы: Географиялық ақпараттық жүйелер (ГАЖ)

Географиялық ақпараттық жүйеге тән кеңістіктік деректер:

A) Мәтіндер, талдау ақпараты, географиялық карталар, спутниктік суреттер
B) Ғарыштық зерттеулер, далалық зерттеулердің нәтижелері, топографиялық карталар

C) Қашықтықтан зерделеу ақпараты, географиялық карталар, далалық зерттеулердің нәтижелері
D) Аэрофототүсірілімдер, қашықтықтан зерделеу ақпараты, ғарыштық зерттеулер

Жауабы: C) Қашықтықтан зерделеу ақпараты, географиялық карталар, далалық зерттеулердің нәтижелер

5)Тақырыбы: Халықтар географиясы (этникалық топтар)
Оңтүстік Америкаға Испания мен Португалиядан келгендердің ұрпақтары

A) Инктер
B) Креолдар
C) Бурлар
D) Малагасийлер

Жауабы: B) Креолдар

6) Тақырыбы: Картография (жер бедерін бейнелеу)
Биіктіктері бірдей нүктелерді қосатын қисық тұйық сызықтар

A) Меридиан
B) Экватор
C) Горизонталь
D) Бергштрих

Жауабы: C) Горизонталь

7) Тақырыбы: Қазақстанның физикалық географиясы (қорықтар мен жануарлар дүниесі)
Марқакөл қорығының эндемик балығы

A) Мөңке
B) Алабұға
C) Табан балық
D) Сазан

Жауабы: A) Мөңке

8) Тақырыбы: Табиғат зоналары (субтропиктік ормандар мен бұталар)

Қатты жапырақты мәңгі жасыл ормандар мен бұталар зонасына сәйкес келетін тұжырым

A) Жазы ыстық, құрғақ, қысы жылы, ылғалды
B) Үндістанның батыс жағалауын алып жатыр
C) Жазы аптап ыстық, құрғақ, ал қысы суық
D) Негізгі жануарлары – қарсақ, қасқыр, түлкі

Жауабы: A) Жазы ыстық, құрғақ, қысы жылы, ылғалды

9) Тақырыбы: Дүниежүзілік шаруашылық (өнеркәсіп географиясы)

Дүние жүзі бойынша кеме жасаудан жетекші орында тұрған елдер

A) Сингапур, Тайланд, Сауд Арабиясы
B) Ресей, Украина, Молдова
C) Корея Республикасы, Жапония, Германия
D) Италия, Грекия, Мальта

Жауабы: C) Корея Республикасы, Жапония, Германия

10) Тақырыбы: Табиғат зоналары (топырақ және қарашірік мөлшері)

Орманды дала зонасының топырағындағы қарашіріктің пайыздық мөлшерін табыңыз

A) 0.9%
B) 9%
C) 2-3%
D) 1-2%

Жауабы: B) 9%

11) Тақырыбы: Дүниежүзілік шаруашылық (халықаралық ұйымдар, ОПЕК)

Парсы шығанағындағы аралда орналасқан, ОПЕК мүшелігінен шығып қалған мемлекет

A) Катар
B) Кувейт
C) Оман

D) Бахрейн

Жауабы: D) Бахрейн

12) Тақырыбы: Дүниежүзілік физикалық география (өзендер)
Асуан бөгені салынған өзен

A) Замбези
B) Нигер
C) Ніл
D) Конго

Жауабы: C) Ніл

13) Тақырыбы: Қазақстанның климатологиясы (ауа массалары)
Қазақстан аумағына әсер ететін ауа массаларының түрлерін табыңыз

A) Арктикалық, қоңыржай, субтропиктік
B) Антарктикалық, субантарктикалық
C) Қоңыржай, арктикалық, тропиктік
D) Субарктикалық, субэкваторлық, тропиктік

Жауабы: C) Қоңыржай, арктикалық, тропиктік

14) Тақырыбы: Қазақстанның экономикалық географиясы (табиғат ресурстары)
Орталық Қазақстанда өндірілетін табиғат ресурстары

A) Хром, қорғасын, вольфрам
B) Көмір, темір, мыс
C) Мұнай, көмір, хром
D) Көмір, хром, қорғасын

Жауабы: B) Көмір, темір, мыс

15) Тақырыбы: Географиялық қабықтар (биосфера)
Жер шарындағы тірі организмдер таралған аймақты табыңыз

A) Гидросфера
B) Атмосфера
C) Биосфера
D) Литосфера

Жауабы: C) Биосфера

16) Тақырыбы: Халықаралық ұйымдар (БҰҰ жүйесі)
БҰҰ-ның атом энергетикасы жөніндегі халықаралық агенттігі

A) ФАО
B) ЕО
C) МАГАТЭ
D) НАТО

Жауабы: C) МАГАТЭ

17) Тақырыбы: Дүниежүзілік шаруашылық (мұнай географиясы)
Дүниежүзіндегі мұнай алаптары шоғырланған елдерді табыңыз

A) Еуропада
B) Африка елдерінде
C) АҚШ-та
D) Дамушы елдерде

Жауабы: D) Дамушы елдерде

18) Тақырыбы: Климаттық белдеулер (өтпелі белдеулер)
Өтпелі климаттық белдеу

A) Антарктикалық
B) Қоңыржай
C) Субэкваторлық
D) Тропиктік

Жауабы: C) Субэкваторлық

19)Тақырыбы: Қазақстанның физикалық географиясы (өсімдік жамылғысы)
Алтайдың орман алқабын құрайтын ағаштар

A) Шамшат, жыңғыл
B) Майқарағай, шырша
C) Жыңғыл, алма
D) Терек, көктерек

Жауабы: B) Майқарағай, шырша

20)Тақырыбы: Дүниежүзілік мұхит (құрылымы мен бөліктері)
Дүниежүзілік мұхит бөліктерін табыңыз

A) Теңіз, бұғаз, рифтер
B) Теңіз, материктік беткей
C) Теңіздер, шығанақтар, бұғаздар
D) Арал, шельф

Жауабы: C) Теңіздер, шығанақтар, бұғаздар

21) Тақырыбы: Қазақстанның экономикалық географиясы (пайдалы қазбалар)
Қазақстандағы көмір алаптарының саны

A) 17
B) 10
C) 12
D) 14

Жауабы: B) 10

22) Тақырыбы: Дүниежүзілік шаруашылық (қара металлургия)
Қытайдағы ірі қара металлургия орталығы

A) Тибет
B) Сычуань
C) Шанхай
D) Аньшань

Жауабы: D) Аньшань

23) Тақырыбы: Дүниежүзілік шаруашылық (қара металлургия)
Шойын өндіруден жетекші елді табыңыз

A) Қытай
B) Үндістан
C) Ресей
D) Бразилия

Жауабы: A) Қытай

24) Тақырыбы: Дүниежүзілік шаруашылық (елдердің экономикалық типтері)
Өтпелі экономикаға тән елдер

A) Кипр, Мальта, Либерия
B) Германия, Люксембург, Бельгия
C) Шығыс Еуропа елдері, КСРО құрамындағы елдер, Вьетнам, Куба
D) Швеция, Швейцария, Аустрия

Жауабы: C) Шығыс Еуропа елдері, КСРО құрамындағы елдер, Вьетнам, Куба

25) Тақырыбы: Дүниежүзілік физикалық география (көлдер)
Еуропа мен Азия аралығында орналасқан дүниежүзіндегі ең ірі көл

A) Каспий теңізі
B) Жоғарғы көл
C) Арал теңізі
D) Виктория көлі

Жауабы: A) Каспий теңізі

26) Тақырыбы: Солтүстік Американың табиғат зоналары
Солтүстік Американың табиғат зоналарының сипаттамасы

A) Ұлттық саябақтар мен қорықтар саны өте көп

B) Еуразия мен Солтүстік Американың табиғат зоналары ұқсас
C) Өсімдіктер мен жануарлар дүниесінің түрі Оңтүстік Америкаға ұқсайды
D) Солтүстігінде зоналар батыстан шығысқа қарай ендік бағытта таралған
E) Биік шөптерден тұратын даланы пампа деп атайды
F) Тайга зонасында қара, ақ, көгілдір шырша және Тянь-Шань шыршасы кездеседі

Жауабы: A) Ұлттық саябақтар мен қорықтар саны өте көп, B) Еуразия мен Солтүстік Американың табиғат зоналары ұқсас, D) Солтүстігінде зоналар батыстан шығысқа қарай ендік бағытта таралған

27) Тақырыбы: Қазақстанның физикалық географиясы (мұздықтар)
Іле Алатауының мұздығы (мұздықтары)

A) Абай
B) Жамбыл
C) Корженевский
D) Берг
E) Некрасов
F) Богатырь

Жауабы: C) Корженевский, F) Богатырь

28) Тақырыбы: Дүниежүзілік саяси карта (мемлекеттердің шекаралары)
Тәжікстанмен шектесетін ел (-дер)

A) Ресей
B) Өзбекстан
C) Иран
D) Ауғанстан
E) Беларусь
F) Моңғолия

Жауабы: B) Өзбекстан, D) Ауғанстан

29) Тақырыбы: Қазақстанның физикалық географиясы (қорықтар мен қорғалатын нысандар)

Қорықтары мен қорғалатын нысандары және облыстары дұрыс берілген нұсқа (-лар)

A) Үстірт – арқар, гепард – Маңғыстау
B) Алматы – шортан, барыс – Алматы
C) Қаратау – бұғы, бүркіт – Жамбыл
D) Ақсу Жабағылы – қасқыр, шырша – Алматы
E) Қорғалжын – қоқиқаз (фламинго), қызғалдақ – Ақмола
F) Наурызым – қарағай, тобықты – Қостанай

Жауабы: A) Үстірт – арқар, гепард – Маңғыстау, E) Қорғалжын – қоқиқаз (фламинго), қызғалдақ – Ақмола, F) Наурызым – қарағай, тобықты – Қостанай

30) Тақырыбы: Антарктида (географиялық нысандар)
Антарктида нысаны (-дары)

A) Оймякон
B) Винсон
C) Тасмания
D) Эребус
E) Эльбрус
F) «Восток»

Жауабы: B) Винсон, D) Эребус, F) «Восток»

31) Тақырыбы: Қазақстанның физикалық географиясы (жер бедері, таулар)

Алтай ірі географиялық ауданының Қазақстанға кіретін бөлігі

A) Оңтүстігі

B) Солтүстігі

C) Солтүстік-шығысы

D) Оңтүстік-батысы

Жауабы: D) Оңтүстік-батысы

32) Тақырыбы: Қазақстанның физикалық географиясы (жер бедері, таулар)

Картада 1 санымен берілген географиялық ауданның негізгі байлығы

A) Хром

B) Көмір

C) Мұнай

D) Мыс

Жауабы: C) Мұнай

33) Тақырыбы: Қазақстанның физикалық географиясы (жер бедері, таулар)

Сарыарқамен шектеспейтін географиялық аудан

A) Солтүстік Қазақ жазығы
B) Тянь-Шань
C) Тұран ойпаты
D) Шығыс Еуропа

Жауабы: D) Шығыс Еуропа

34) Тақырыбы: Қазақстанның физикалық географиясы (жер бедері, таулар)

Картадағы 3 санымен берілген физикалық географиялық ауданды солтүстікке және оңтүстікке бөліп тұрған өзен

A) Жайық
B) Сырдария
C) Іле
D) Шу

Жауабы: B) Сырдария

35) Тақырыбы: Қазақстанның физикалық географиясы (жер бедері, таулар)

Территориясы толығымен Қазақстан аумағында орналасқан географиялық аудан

A) Солтүстік Қазақ жазығы
B) Шығыс Еуропа жазығы
C) Сарыарқа
D) Тұран

Жауабы: C) Сарыарқа