1 ВАРИАНТ

1) Тема: История географических открытий

Кто из перечисленных исследователей открыл Антарктиду?

A) А. Тасман и А. Веспуччи
B) Ф. Беллинсгаузен и М. Лазарев
C) Н. Миклухо-Маклай и А. Никитин
D) Р. Амундсен и Р. Скотт

Ответ: B) Ф. Беллинсгаузен и М. Лазарев

2 Тема: Политическая карта мира (США)

Укажите штат США, берега которого омываются водами двух океанов

A) Аляска
B) Калифорния
C) Джорджия
D) Нью-Йорк

Ответ: A) Аляска

3 Тема: Население и расселение (агломерации Европы)

В какой стране расположена крупная агломерация Острава-Карвин

A) В Албании
B) В Чехии
C) В Словении
D) В Болгарии

Ответ: B) В Чехии

4 Тема: Международные организации

Назовите организацию, играющую не последнюю роль в урегулировании международных конфликтов

A) ЛАГ
B) АСЕАН
C) НАТО
D) ООН

Ответ: D) ООН

5 Тема: Экономическая география Казахстана (полезные ископаемые)

Крупнейшие залежи угля в Казахстане имеются в бассейнах

A) Карагандинском и Мангышлакском
B) Павлодарском и Карагандинском
C) Карагандинском и Экибастузском
D) Экибастузском и Мангышлакском

Ответ: C) Карагандинском и Экибастузском

6 Тема: Природные зоны Казахстана (растительность степи)
Укажите растения, растущие в степной зоне Казахстана

A) Ковыль, типчак
B) Саксаул, тамарикс
C) Береза, осина
D) Ель, сосна

Ответ: A) Ковыль, типчак

7 Тема: Мировое сельское хозяйство (зерновые культуры)
Укажите лидера производства зерновых в мире

A) Канада
B) США
C) Казахстан
D) РФ

Ответ: B) США

8 Тема: Геохронология (геологические эры и периоды)
Выберите периоды, относящиеся к кайнозойской эре

A) Триасовый, юрский, меловой
B) Палеогеновый, неогеновый, четвертичный
C) Кембрийский, ордовикский, силурийский
D) Пермский, каменноугольный, девонский

Ответ: B) Палеогеновый, неогеновый, четвертичный

9 Тема: Физическая география Казахстана (озёра)
Выберите озеро с наибольшей площадью водного зеркала, расположенное в пределах Северо-Казахской равнины

A) Шалкар
B) Сасыкколь
C) Силетитениз
D) Кызылкак

Ответ: C) Силетитениз

10 Тема: Физическая география материков и океанов
Выберите континент, наиболее удаленный от экватора

A) Арктика
B) Евразия
C) Австралия
D) Антарктида

Ответ: D) Антарктида

11 Тема: Экономическая география Казахстана (промышленность)
Уникальность Центрального Казахстана, с точки зрения производства, заключается в том, что

A) Это единственный в республике район по производству титана и магния
B) Это единственный в республике район по производству чугуна и стали
C) Это единственный в республике район по производству свинца и цинка
D) Это единственный в республике район по производству алюминия и титана

Ответ: B) Это единственный в республике район по производству чугуна и стали

12 Тема: Геология (складчатости и геологические эпохи)
Какие из данных складчатостей образовались в палеозойскую эру

A) Альпийская и байкальская складчатости
B) Альпийская и каледонская складчатости
C) Альпийская и герцинская складчатости
D) Каледонская и герцинская складчатости

Ответ: D) Каледонская и герцинская складчатости

13 Тема: Введение в географию (объект изучения)
Определите основной объект исследования географической науки

A) Физическое тело
B) Географическая оболочка
C) Хозяйственная деятельность человека
D) Солнечная система

Ответ: B) Географическая оболочка

14 Тема: Политическая карта мира (заморские территории)
Владения Франции в Латинской Америке

A) Парагвай, Гваделупа
B) Гондурас, Гаити
C) Мартиника, Гвиана
D) Эквадор, Гвиана

Ответ: C) Мартиника, Гвиана

15 Тема: Физическая география Казахстана (заповедники)
Заповедники горных районов

A) Аксу-Жабагылы, Алматинский
B) Барсакельмес, Аксу-Жабагылы
C) Устиртский, Каратауский
D) Наурызым, Алматинский

Ответ: A) Аксу-Жабагылы, Алматинский

16 Тема: Социальная география (религии мира)
Родиной трех мировых религий называют

A) Америку
B) Африку
C) Азию
D) Европу

Ответ: C) Азию

17 Тема: Транспортная география
Назовите вид транспорта, используемого для грузо- и пассажироперевозок в основном на короткие расстояния и характеризующийся большим объемом вредных выбросов

A) Автомобильный
B) Морской
C) Авиационный
D) Железнодорожный

Ответ: A) Автомобильный

18 Тема: История географических исследований
Автором какой книги является Л.С. Берг

A) «Топография Оренбургская»
B) «Аральское море»
C) «Книга Большому чертежу»
D) «Огуз-наме»

Ответ: B) «Аральское море»

19 Тема: Физическая география материков и океанов
Южную Америку от Северной отделяет канал

A) Суэцкий
B) Панамский
C) Южный
D) Северный

Ответ: B) Панамский

20 Тема: Демография (население)
Как называется показатель количества жителей, проживающих в пределах 1 км²

A) Плотность
B) Естественный прирост
C) Рождаемость
D) Численность

Ответ: A) Плотность

21 Тема: Политическая карта мира (трансконтинентальные страны)
Укажите государство, которое имеет территории на двух материках

A) Тунис
B) Марокко
C) Египет
D) Судан

Ответ: C) Египет

22 Тема: Сельское хозяйство Казахстана (технические культуры)
Техническая культура, которая не растет в Казахстане

A) Сахарная свекла
B) Подсолнечник
C) Табак
D) Сахарный тростник

Ответ: D) Сахарный тростник

23 Тема: Политическая география (государственные символы)
Изображения на государственном гербе Австралийского союза

A) Ехидна
B) Кенгуру и страус эму
C) Утконос
D) Собака Динго

Ответ: B) Кенгуру и страус эму

24 Тема: Политическая карта мира (страны Азии)
Государство, расположенное на полуостровах Индокитай и Малакка

A) Филиппины
B) Корея
C) Индонезия
D) Таиланд

Ответ: D) Таиланд

25 Тема: Политическая карта мира (микрогосударства)
Укажите микрогосударство, которое расположено в Азии

A) Сингапур
B) Монако
C) Сан-Марино
D) Андорра

Ответ: A) Сингапур

26 Тема: Сельское хозяйство Казахстана (животноводство)
Казахская порода лошадей

A) Великопольская
B) Адаевская
C) Архаромериносная
D) Берберийская
E) Каспийская
F) Кушумская

Ответ: B) Адаевская, F) Кушумская

27 Тема: Геополитика
Приведите примеры геополитической категории

A) Национальные интересы
B) Сообщество
C) Национальная политика
D) Пространство
E) Национальный доход
F) Национальный план

Ответ: A) Национальные интересы, D) Пространство

28 Тема: Физическая география Казахстана (реки)
Укажите трансграничные реки Казахстана в определении физико-географического положения

A) Ертис – Китай, Казахстан, Россия
B) Жайык – Туркменистан, Кыргызстан, Казахстан
C) Сырдарья – Кыргызстан, Узбекистан, Казахстан
D) Есиль – Иран, Россия, Казахстан
E) Иле – Китай, Кыргызстан, Казахстан
F) Тобыл – Кыргызстан, Казахстан, Узбекистан

Ответ: A) Ертис – Китай, Казахстан, Россия, C) Сырдарья – Кыргызстан, Узбекистан, Казахстан, E) Иле – Китай, Кыргызстан, Казахстан

29 Тема: Физическая география Казахстана (природные зоны)
Природные зоны Казахстана

A) Тундра
B) Саванны и вечнозеленые леса
C) Тайга
D) Смешанные и широколиственные леса
E) Полупустынная и пустынная зона
F) Лесостепная и степная зона

Ответ: E) Полупустынная и пустынная зона, F) Лесостепная и степная зона

30 Тема: Экономическая география мира (химическая промышленность)
Азотные удобрения в Узбекистане производят в городах

A) Навои
B) Мубарек
C) Бухара
D) Чирчик
E) Фергана
F) Халкабад

Ответ: A) Навои, D) Чирчик, E) Фергана

31 Тема: Физическая география Казахстана

Самая мутная река Казахстана, обозначена цифрой

A) 6
B) 3
C) 10
D) 7

Ответ: A) 6

32 Тема: Физическая география Казахстана

Хан-Тенгри расположен в горах под цифрой

A) 8
B) 1
C) 5
D) 9

Ответ: C) 5

33 Тема: Физическая география Казахстана

Наивысшая точка Аксоран расположена на объекте под цифрой

A) 3
B) 1
C) 8
D) 5

Ответ: B) 1

34 Тема: Физическая география Казахстана

Самая полноводная река Казахстана обозначена цифрой

A) 3
B) 2
C) 4
D) 6

Ответ: A) 3

35 Тема: Физическая география Казахстана

Бухтарминское и Капшагайское водохранилища расположены на реках

A) 3, 6
B) 3, 2
C) 6, 7
D) 2, 10

Ответ: **B) 3, 2**

2 ВАРИАНТ

1) Тема: Население мира (плотность населения)
Страна с плотностью населения более 800 человек на 1 км²

A) Бруней
B) Монголия
C) Бангладеш
D) Сирия

Ответ: C) Бангладеш

2) Тема: Международные организации (АСЕАН)
Страны – члены ассоциации, способствующие установлению мира и стабильности в Юго-Восточной Азии

A) Казахстан, Беларусь, Россия
B) Бруней, Вьетнам, Индонезия
C) Ира, Ирак, Алжир
D) Боливия, Колумбия, Никарагуа

Ответ: B) Бруней, Вьетнам, Индонезия

3) Тема: Экономическая география стран СНГ (природные ресурсы)
Укажите страну, расположенную на юго-западе СНГ и основным богатством которой являются почвенно-климатические ресурсы

A) Украина
B) Беларусь
C) Казахстан
D) РФ

Ответ: C) Казахстан

4) Тема: Мировое сельское хозяйство (зерновые культуры)
Укажите лидера производства зерновых в мире

A) РФ
B) США
C) Канада
D) Казахстан

Ответ: B) США

5) Тема: Экономическая география Казахстана (металлургия)
Выберите город – центр металлургии Западного Казахстана

A) Актобе
B) Жанаозен
C) Аксай
D) Кульсары

Ответ: A) Актобе

6) Тема: Физическая география Казахстана (полезные ископаемые)
В Жетысуском Алатау имеются месторождения

A) Бокситов
B) Нефти и газа
C) Каменного угля
D) Полиметаллических руд

Ответ: D) Полиметаллических руд

7) Тема: Экономическая география (размещение промышленности)
Назовите фактор, определяющий вопрос размещения предприятий по производству легких и тугоплавких цветных металлов

A) Трудовых ресурсов
B) Потребительский
C) Энергетический
D) Демографический

Ответ: C) Энергетический

8) Тема: Материки и их крайние точки
Крайние точки – Пиай, Рока, Дежнева, Челюскина имеет

A) Северная Америка
B) Африка
C) Южная Америка
D) Евразия

Ответ: D) Евразия

9) Тема: Внутренние воды материков (реки Австралии)
Пересыхающие русла рек Австралии

A) Старицы
B) Крики
C) Притоки
D) Вади

Ответ: B) Крики

10) Тема: Экономическая география Казахстана (Центральный Казахстан)
Уникальность Центрального Казахстана, с точки зрения производства, заключается в том, что

A) Это единственный в республике район по производству чугуна и стали
B) Это единственный в республике район по производству титана и магния
C) Это единственный в республике район по производству свинца и цинка
D) Это единственный в республике район по производству алюминия и титана

Ответ: A) Это единственный в республике район по производству чугуна и стали

11) Тема: Физическая география Казахстана (рельеф)
Назовите низменные участки рельефа нашей республики

A) Прикаспийская низменность, Западно-Сибирская равнина
B) Горы Алтай, Мугалжар
C) Бетпак-Дала, Общий Сырт
D) Горы Тянь-Шань, Алтай

Ответ: A) Прикаспийская низменность, Западно-Сибирская равнина

12) Тема: Мировое хозяйство (этапы развития)
В какой период мирового хозяйства развивались сферы массового распространения интеллектуального труда, научного образования и информации, средств связи, культуры?

A) Постиндустриальный период
B) В период первой мировой войны
C) Индустриальный период
D) Доиндустриальный период

Ответ: A) Постиндустриальный период

13) Тема: Физическая география (тепловые свойства поверхностей)
Какая из поверхностей обладает высокими показателями термоизоляции – медленно нагревается и медленно остывает?

A) Пески
B) Такыры
C) Леса
D) Ледники

Ответ: C) Леса

14) Тема: Географические координаты
Какой термин обозначает величину дуги меридиана (в градусах) от экватора до определенной точки?

A) Пространственные данные
B) Полюс
C) Географическая долгота
D) Географическая широта

Ответ: D) Географическая широта

15) Тема: Великие географические открытия
В 1522 году «Виктория» стала первым кораблем, вышедшим на орбиту Земли. Благодаря этой экспедиции была доказана сферическая форма Земли, был открыт Тихий океан, и океан получил такое название. О экспедиции какого путешественника говорится в приведенной информации?

A) Христофор Колумб
B) Фернан Магеллан
C) Александр Гумбольдт
D) Васко да Гама

Ответ: B) Фернан Магеллан

16) Тема: Климатические пояса
Материк, где встречаются все климатические пояса

A) Австралия
B) Северная Америка
C) Евразия
D) Африка

Ответ: C) Евразия

17) Тема: Глобальные проблемы человечества
Определите тип глобальной проблемы в Казахстане

A) Загрязнение городов
B) Проблема «севера и юга»
C) Демографический взрыв
D) Опустынивание территории

Ответ: D) Опустынивание территории

18) Тема: Океаны Земли
Назовите океан, который составляет основную часть Арктики

A) Южный
B) Северный Ледовитый
C) Тихий
D) Атлантический

Ответ: B) Северный Ледовитый

19) Тема: Глобальные проблемы человечества (политические)
Определите глобальную проблему, которая относится к группе политических

A) Отставание развивающихся стран
B) Ограниченность ресурсов
C) Международный терроризм
D) Демографический взрыв

Ответ: C) Международный терроризм

20) Тема: Экономико-географическое положение Казахстана
Экономико-географическое положение нашей республики считается невыгодным, поскольку

A) Более 30% поверхности – горы
B) На территории республики расположены крупные бессточные озера
C) Территория республики удалена от морских путей
D) Казахстан расположен между двумя крупными странами

Ответ: C) Территория республики удалена от морских путей

21) Тема: Земельные ресурсы Казахстана
Общая площадь земельного фонда Казахстана

A) 36 млн га
B) 224,2 млн га
C) 17 млн га
D) 272 млн га

Ответ: D) 272 млн га

22) Тема: Климатические пояса Земли
Укажите климатический пояс с преобладанием нисходящих токов воздуха и высокого атмосферного давления

A) Арктический
B) Умеренный
C) Субтропический
D) Тропический

Ответ: D) Тропический

23) Тема: Гидросфера Земли
11% площади суши занимают

A) Ледники
B) Подземные воды
C) Болота
D) Реки

Ответ: A) Ледники

24) Тема: Земля как планета (движение Земли)
Какую величину составляет разница в расстоянии между самым близким и самым дальним положением Земли к Солнцу?

A) 3 млн км
B) 4 млн км
C) 5 млн км
D) 1 млн км

Ответ: C) 5 млн км

25) Тема: Реки Казахстана
Река, имеющая южное направление

A) Иле
B) Жайык
C) Ертис
D) Тобыл

Ответ: **B) Жайык**

26) Тема: Топливная промышленность (переработка нефти)
Продукты переработки нефти

A) Висмут
B) Латунь
C) Гудрон
D) Мазут
E) Бокситы
F) Бензин

Ответ: C) Гудрон, D) Мазут, F) Бензин

27) Тема: Сельское хозяйство (растениеводство)
Франция занимает 4-е место в мире по производству пшеницы после

A) России
B) Китая
C) Мексики
D) Казахстана
E) США
F) Индии

Ответ: B) Китая, E) США, F) Индии

28) Тема: Политическая география
Азербайджан граничит с

A) Турцией
B) Ираном
C) Мексикой
D) Арменией
E) Ираком
F) Оманом

Ответ: A) Турцией, B) Ираном, D) Арменией

29) Тема: География населения (этнические группы)
Коренные жители Сахары

A) Пигмеи
B) Готтентоты
C) Тутси
D) Туареги
E) Арабы
F) Бушмены

Ответ: D) Туареги

30) Тема: Рекреационные ресурсы
Рекреационные ресурсы бывают двух видов

A) Природные
B) Культурно-исторические
C) Климатические
D) Биотические
E) Ландшафтные
F) Орографические

Ответ: A) Природные, B) Культурно-исторические

31)
Природопользование – использование природных ресурсов в повседневной жизни человека. Природопользование подразделяется на общее и специальное.
Общее природопользование – является постоянным и осуществляется бесплатно для удовлетворения потребностей населения. Ограничение общего природопользования допускается, если это предусмотрено законами.
Специальное природопользование – деятельность физического или юридического лица, осуществляющего на платной основе, в порядке установленном настоящим Кодексом и иными законами.

Пример нерационального природопользования

A) Использование альтернативных источников энергии
B) Исчезновение определенных видов животных и растений
C) Безотходное производство
D) Разработка и внедрение «чистых» производств

Ответ: B) Исчезновение определенных видов животных и растений

32)
Природопользование – использование природных ресурсов в повседневной жизни человека. Природопользование подразделяется на общее и специальное.
Общее природопользование – является постоянным и осуществляется бесплатно для удовлетворения потребностей населения. Ограничение общего природопользования допускается, если это предусмотрено законами.
Специальное природопользование – деятельность физического или юридического лица, осуществляющего на платной основе, в порядке установленном настоящим Кодексом и иными законами.

Рациональное природопользование является разумным и не допускает

A) Роста численности населения
B) Не совершенствования технологических процессов
C) Снижения продуктивности природной среды
D) Увеличение масштабов производства

Ответ: C) Снижения продуктивности природной среды

33)
Природопользование – использование природных ресурсов в повседневной жизни человека. Природопользование подразделяется на общее и специальное.
Общее природопользование – является постоянным и осуществляется бесплатно для удовлетворения потребностей населения. Ограничение общего природопользования допускается, если это предусмотрено законами.
Специальное природопользование – деятельность физического или юридического лица, осуществляющего на платной основе, в порядке установленном настоящим Кодексом и иными законами.

Экологические проблемы связаны с ...

A) Немногочисленным ростом населения
B) Экологической безграмотностью населения
C) Совершенствованием технологических процессов
D) Беспрецедентным не увеличением производств

Ответ: B) Экологической безграмотностью населения

34)
Природопользование – использование природных ресурсов в повседневной жизни человека. Природопользование подразделяется на общее и специальное.
Общее природопользование – является постоянным и осуществляется бесплатно для удовлетворения потребностей населения. Ограничение общего природопользования допускается, если это предусмотрено законами.
Специальное природопользование – деятельность физического или юридического лица, осуществляющего на платной основе, в порядке установленном настоящим Кодексом и иными законами.

Пример рационального природопользования:

A) Исчезновение определенных видов животных и растений
B) Обеднение природных ресурсов
C) Использование альтернативных источников энергии
D) Выброс отходов в реки и озера предприятиями

Ответ: C) Использование альтернативных источников энергии

35)
Природопользование – использование природных ресурсов в повседневной жизни человека. Природопользование подразделяется на общее и специальное.
Общее природопользование – является постоянным и осуществляется бесплатно для удовлетворения потребностей населения. Ограничение общего природопользования допускается, если это предусмотрено законами.
Специальное природопользование – деятельность физического или юридического

лица, осуществляющего на платной основе, в порядке установленном настоящим Кодексом и иными законами.

Природопользование подразделяется на

A) Потребление и производство
B) Общее и специальное
C) Освоение и преобразование
D) Снижение и продуктивность

Ответ: B) Общее и специальное

3 ВАРИАНТ

1) Тема: Атмосфера
Назовите систему воздушных потоков в атмосфере

A) Атмосферный фронт
B) Конвекция
C) Транспирация
D) Циркуляция воздушных масс

Ответ: **D) Циркуляция воздушных масс**

2) Тема: Масштаб и карты
Если масштаб глобуса 1 : 100 000 000, то длина линии экватора на нем равна

A) 50 см
B) 10 см
C) 40 см
D) 20 см

Ответ: **C) 40 см**

3) Тема: Атмосфера

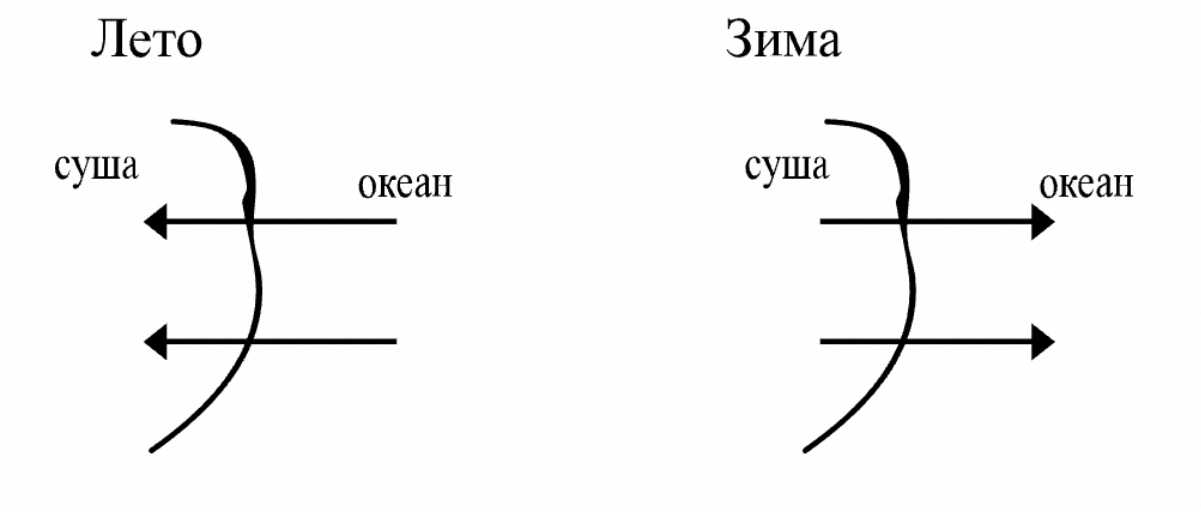

Ветер, изображенный на рисунке

A) Самум
B) Пассат
C) Бриз
D) Муссон

Ответ: **D) Муссон**

4) Тема: Мировой океан
Сколько процентов воды Мирового океана составляет объем воды Тихого океана?

A) 43%
B) 65%
C) 53%
D) 70%

Ответ: **C) 53%**

5) Тема: Атмосфера и климат
В каком направлении движутся пассаты северного полушария?

A) Северо-западном
B) Северном
C) Южном
D) Северо-восточном
Ответ: D) Северо-восточном

6) Тема: Промышленность / Химическая промышленность
Что из нижеперечисленного занимает «львиную долю» продуктов химической промышленности?
A) Пестициды
B) Кислоты и удобрения
C) Гербициды
D) Тринитротолуол
Ответ: B) Кислоты и удобрения

7)Тема: Реки Казахстана
Какая из перечисленных рек протекает по территории Восточно-Казахстанской и Павлодарской областей?
A) Сарысу
B) Ертис
C) Шу
D) Талас
Ответ: B) Ертис

8) Тема: Экономика Казахстана / Экспорт
Что из нижеперечисленного экспортирует Казахстан?
A) Минеральные ресурсы

B) Бытовую технику
C) Удобрения
D) Алмазы
Ответ: A) Минеральные ресурсы

9) Тема: Астрономия / Солнечная система
Путь вращения планет вокруг Солнца
A) Орбита
B) Инерция
C) Полюс
D) Система
Ответ: A) Орбита

10) Тема: Энергетика
Укажите страны, получающие электроэнергию, вырабатываемую в основном на АЭС.
A) Франция, Япония
B) Республика Корея, Таиланд
C) США, Россия
D) Италия, Швейцария
Ответ: A) Франция, Япония

11) Тема: Солнечная система
Какой по счету планетой является Земля по отношению к Солнцу?
A) Четвертой
B) Второй
C) Пятой
D) Третьей
Ответ: D) Третьей

12) Тема: История человечества
Какой из перечисленных периодов является датой начала эры человечества?
A) Силур
B) Триас
C) Четвертичный
D) Пермь
Ответ: C) Четвертичный

13) Тема: Ветры и климат
Ветер, меняющий направление 2 раза в год
A) Западный
B) Бриз
C) Горный
D) Муссон
Ответ: D) Муссон

14) Тема: Население Земли
Страна с плотностью населения более 800 человек на 1 км²

A) Монголия
B) Бруней
C) Сирия
D) Бангладеш
Ответ: D) Бангладеш

15) Тема: Животноводство Казахстана
Назовите основные районы верблюдоводства Казахстана.
A) Южно-Казахстанская, Акмолинская области
B) Алматинская, Павлодарская
C) ЮКО, СКО
D) Атырауская, Мангистауская
Ответ: D) Атырауская, Мангистауская

16) Тема: Государственные границы Казахстана
Укажите государство, с которым Казахстан граничит по Аральскому морю.
A) Узбекистан
B) Монголия
C) Российская Федерация
D) Таджикистан
Ответ: A) Узбекистан

17) Тема: Мировой океан / океанические течения
В районах смешивания теплых и холодных вод образуются
A) Районы с высокой биологической активностью
B) Энергетические ресурсы
C) Атоллы
D) Нефтяные месторождения
Ответ: A) Районы с высокой биологической активностью

18) Тема: Рельеф Земли
Укажите верное утверждение относительно рельефа Земли.
A) Эндогенные силы не влияют на изменение рельефа.
B) Материки и океанические впадины относятся к крупнейшим формам рельефа Земли.
C) Рельеф Земли меняется только летом.
D) Рельеф – это только экзогенные силы.
Ответ: B) Материки и океанические впадины относятся к крупнейшим формам рельефа Земли.

19) Тема: История Казахстана / Учёные
Ученый – автор труда «Очерки о Джунгарии»
A) Г. Потанин
B) Ш. Уалиханов
C) К. Жалаири
D) М. Кашгари
Ответ: B) Ш. Уалиханов

20) Тема: Сельское хозяйство / Пшеница
Лидеры по сбору пшеницы
A) США, Канада, Австралия
B) Испания, Швеция, Финляндия
C) Болгария, Венгрия, Румыния
D) Алжир, Ливия, Египет
Ответ: A) США, Канада, Австралия

21) Тема: Почвы и растительность
Наличие какого типа почв предполагает высокую урожайность зерновых?

A) Ферралитовых
B) Серо-бурых
C) Лесных сероземов
D) Чернозема

Ответ: D) Чернозема

22) Тема: Экономическое районирование
Экономическое районирование Казахстана провел:

A) Л.С. Берг
B) К.И. Сатпаев
C) Ш.М. Надыров
D) Н.Н. Баранский

Ответ: C) Ш.М. Надыров

23) Тема: Государства и их типы
Полуостровные государства:

A) Сомали, Китай
B) Испания, Германия
C) Португалия, Франция
D) Италия, Греция

Ответ: D) Италия, Греция

24) Тема: Природные заповедники Казахстана
Укажите заповедник, находящийся на склонах Таласского Алатау:

A) Алматинский
B) Аксу-Жабаглинский
C) Западно-Алтайский
D) Барсакельмесский

Ответ: B) Аксу-Жабаглинский

25) Тема: Минеральные ресурсы
Выберите сырье, которое является минерально-строительным:

A) Асфальт
B) Дерево
C) Керамика
D) Щебень

Ответ: D) Щебень

26) Тема: Экономическая география Азии
Новые индустриальные страны Азии:

A) Кувейт
B) Непал
C) Лаос
D) Сирия
E) Тайвань
F) Сингапур

Ответ: E) Тайвань, F) Сингапур

27) Тема: Государственное устройство и политические формы
Страны или территории, не имеющие политической или экономической самостоятельности:

A) Фузии
B) Колонии
C) Республики
D) Унии
E) Монархии
F) Доминионы

Ответ: B) Колонии

28) Тема: Великие географические открытия
Мореплаватели, возглавившие экспедиции из Испании в конце XV и в начале XVI веков:

A) Д. Кабот
B) Г. Стэнл
C) Х. Колумб
D) Ф. Магеллан
E) В. Беринг
F) Э. Кортес

Ответ: C) Х. Колумб, D) Ф. Магеллан

29) Тема: Энергетика и источники энергии
Электростанции, использующие традиционные источники энергии:

A) Приливные
B) Океанических течений

C) Ветроэнергетические
D) Атомные
E) Тепловые
F) Волновые

Ответ: D) Атомные, E) Тепловые

30) Тема: Промышленность Западной Европы
Из-за ориентации стран Западной Европы на привозное сырье:

A) Нефтехимия стран переместилась в морские порты
B) Импортируется готовая продукция нефтехимии
C) Нефтехимия стран терпит экономический кризис
D) Нефтехимия стран переместилась на магистральные нефтепроводы
E) Начались разработки своих месторождений
F) Нефтехимия стран переместилась в нефтедобывающие страны

Ответ: A) Нефтехимия стран переместилась в морские порты

31)

Планктон - мелкие организмы, свободно дрейфующие в водах и неспособные сопротивляться течению.

Нектон - активно плавающие животные, передвигаются на большие расстояния и могут противостоять силе течения.

Бентос - растения и животные, обитающие на грунте и в грунте водных объектов.



Группа многочисленных живых организмов:

A) Зоопланктон
B) Нектон
C) Бентос
D) Фитопланктон

Ответ: B) Нектон

32)

Планктон - мелкие организмы, свободно дрейфующие в водах и неспособные сопротивляться течению.

Нектон - активно плавающие животные, передвигаются на большие расстояния и могут противостоять силе течения.

Бентос - растения и животные, обитающие на грунте и в грунте водных объектов.



Максимальное количество живых организмов обитают на глубине до:

A) 50 м
B) 20 м
C) 150 м
D) 100 м

Ответ: A) 50 м

33)

Планктон - мелкие организмы, свободно дрейфующие в водах и неспособные сопротивляться течению.

Нектон - активно плавающие животные, передвигаются на большие расстояния и могут противостоять силе течения.

Бентос - растения и животные, обитающие на грунте и в грунте водных объектов.



Наименьшее количество планктона и рыбы наблюдается в … широте:

A) умеренной
B) субполярной
C) полярной
D) тропической

Ответ: D) тропической

34)

Планктон - мелкие организмы, свободно дрейфующие в водах и неспособные сопротивляться течению.

Нектон - активно плавающие животные, передвигаются на большие расстояния и могут противостоять силе течения.

Бентос - растения и животные, обитающие на грунте и в грунте водных объектов.



К бентосу относятся:

A) Взрослые головоногие
B) Морские звезды
C) Кишечнополостные
D) Личинки рыб

Ответ: В) Морские звезды

35)

Планктон - мелкие организмы, свободно дрейфующие в водах и неспособные сопротивляться течению.

Нектон - активно плавающие животные, передвигаются на большие расстояния и могут противостоять силе течения.

Бентос - растения и животные, обитающие на грунте и в грунте водных объектов.



Активно плавающие живые организмы:

A) Нектон
B) Бентос
C) Фитопланктон
D) Зоопланктон

Ответ: A) Нектон

4 Вариант

1) Тема: Промышленные центры Казахстана
В каком городе на основе полезных ископаемых Рудного Алтая действует свинцово-цинковый комбинат?

A) В Уральске
B) В Талдыкоргане
C) В Усть-Каменогорске
D) В Костанае

Ответ: C) В Усть-Каменогорске

2) Тема: Географические карты и картография
Как называется графическое изображение местности, сделанное в определенном масштабе?

A) Проект
B) План
C) Модель
D) График

Ответ: B) План

3) Тема: Морские грузоперевозки
Какой из перечисленных видов продукции занимает основной сегмент морских грузоперевозок?

A) Строительные материалы
B) Нефть и нефтепродукты
C) Продукты питания
D) Продукция черной металлургии

Ответ: B) Нефть и нефтепродукты

4) Тема: Геополитическое положение Казахстана
С каким государством у Казахстана самая протяженная граница?

A) С Туркменистаном
B) С Монголией
C) С Российской Федерацией
D) С Азербайджаном

Ответ: C) С Российской Федерацией

5) Тема: Космическая программа Казахстана
Укажите казахстанский спутник, запущенный 20 июня 2014 года с российской пусковой базы «Ясный»:

A) KazEOSat-2
B) KazSat-1
C) KazEOSat-3
D) KazEOSat-1

Ответ: A) KazEOSat-2

6) Тема: Реки мира и их бассейны
Река бассейна Атлантического океана:

A) Амур
B) Волга
C) Ганг
D) Дунай

Ответ: D) Дунай

7) Тема: Географические формы рельефа Казахстана
Выберите плато, находящееся между Сарыаркой и горами Мугалжар:

A) Бетпак Дала
B) Общий сырт
C) Жем
D) Торгайское

Ответ: D) Торгайское

8) Тема: Транспорт и инфраструктура Казахстана
Первая крупная железнодорожная магистраль Казахстана, построенная в 1904–1905 гг.:

A) Петропавловск – Караганда – Шу
B) Оренбург – Ташкент
C) Семипалатинск – Алматы – Луговая
D) Челябинск – Костанай – Кокшетау – Карасу

Ответ: B) Оренбург – Ташкент

9) Тема: Природные ресурсы Казахстана
Какими ресурсами более всего богат Казахстан?

A) Водными
B) Минеральными
C) Геотермальными
D) Лесными

Ответ: B) Минеральными

10) Тема: Полезные ископаемые мира
На территории какой из перечисленных стран находится Йоркшир-Ноттингемширский угольный бассейн?

A) Франция
B) Новая Зеландия
C) Австралия
D) Соединенное королевство Великобритании

Ответ: D) Соединенное королевство Великобритании

11) Тема: Природные комплексы Земли
Укажите крупнейшие природные комплексы:

A) Моря и озера
B) Леса и лесостепи
C) Океаны и материки
D) Горы и равнины

Ответ: C) Океаны и материки

12) Тема: Климатические особенности Казахстана
Ветры, дующие через Жунгарские ворота:

A) Арыстанды-карабасский
B) Курдайский
C) Мугоджарский
D) Сайкан и Эби

Ответ: D) Сайкан и Эби

13) Тема: Экономическая география мира
Новые индустриальные страны:

A) Куба, Коста-Рика
B) Гаити, Бахрейн
C) Тайвань, Сингапур
D) Гаити, Таиланд

Ответ: C) Тайвань, Сингапур

14) Тема: Государственное устройство стран мира
У какой из перечисленных стран формой правления является монархия?

A) Испания
B) Бразилия
C) Алжир
D) Польша

Ответ: A) Испания

15) Тема: Географическое положение и климат
Как называются солнечные лучи, которые падают в район географических полюсов?

A) Прямые
B) Отвесные
C) Скользящие
D) Отраженные

Ответ: C) Скользящие

16) Тема: Природные ресурсы
Что из перечисленного относится к водным ресурсам?

A) Почвенная влага
B) Флора
C) Минералы
D) Лес

Ответ: A) Почвенная влага

17) Тема: Рельеф Азии
Форма рельефа Индии:

A) Турфанская впадина
B) Плато Декан
C) Становое нагорье
D) Пустыня Гоби

Ответ: B) Плато Декан

18) Тема: Страны мира и их площадь
Наиболее крупное государство по площади:

A) Аргентина
B) Мексика
C) Бразилия
D) Китай

Ответ: D) Китай

19) Тема: Географическое положение Казахстана
Какое место по площади территории занимает наша республика в мире?

A) 9
B) 30
C) 1
D) 10

Ответ: A) 9

20) Тема: Национальные парки мира
Один из объектов, которыми знаменит Йеллоустонский национальный парк США:

A) Исторические памятники
B) Развлекательные аттракционы
C) Горячие источники
D) Залежи урана

Ответ: C) Горячие источники

21) Тема: Полезные ископаемые Африки
Государство Африки, на территории которого находится столица «медного пояса»:

A) Мали
B) Заир
C) Эфиопия
D) Нигер

Ответ: B) Заир

22) Тема: Геополитическое положение Казахстана
Определите, в каком году завершились переговоры с Россией по делимитации государственной границы:

A) 2002
B) 2005
C) 2001
D) 2003

Ответ: B) 2005

23) Тема: Социально-экономическое развитие Японии
В какой части Японии сконцентрировано социально-экономическое ядро страны?

A) В Юго-Восточной части острова Хоккайдо
B) На Тихоокеанском побережье острова Сикоку
C) На Тихоокеанском побережье острова Хонсю
D) В горно-лесных районах острова Хонсю

Ответ: C) На Тихоокеанском побережье острова Хонсю

24) Тема: Промышленность Казахстана
Определите города, в которых расположены три нефтеперерабатывающих завода в Казахстане:

A) Актобе, Нур-Султан, Усть-Каменогорск
B) Караганды, Костанай, Темиртау
C) Шымкент, Павлодар, Атырау
D) Актау, Уральск, Алматы

Ответ: C) Шымкент, Павлодар, Атырау

25) Тема: Географические координаты
Между какими меридианами проходит Гринвичский меридиан?

A) 7°30' в. д. и 22°30' в. д.
B) 7°30' з. д. и 22°30' з. д.
C) 0° и 15° в. д.
D) 7°30' з. д. и 7°30' в. д.

Ответ: D) 7°30' з. д. и 7°30' в. д.

26) Тема: Озера и их происхождение
Озеро, возникшее при отчленении от моря или озера части их акватории в результате тектонических движений или образования аккумулятивных форм типа пересыпей и кос:

A) Суффозионное
B) Запрудное
C) Ледниковое
D) Реликтовое
E) Карстовое
F) Мореное

Ответ: D) Реликтовое

27) Тема: Растительный мир Казахстана
Виды растений Каратауского заповедника, занесенные в Красную книгу:

A) Платан
B) Таволгоцвет Шренка
C) Туранга
D) Маралий корень
E) Лох
F) Тюльпан Грейга

Ответ: B) Таволгоцвет Шренка, F) Тюльпан Грейга

28) Тема: Сельское хозяйство Южной Америки
Эту страну называют землей «зеленого золота» и «золотых плодов». По площади и численности населения она самая большая в Южной Америке. Зеленое золото – культурное растение родом из Африки. Золотые плоды дает местное тропическое дерево.

Какая это страна? О каких культурных растениях, выращиваемых в ней, идет речь?

A) Чили
B) Бразилия
C) Аргентина
D) Киви
E) Кофе
F) Какао

Ответ: B) Бразилия, E) Кофе, F) Какао

29) Тема: Рекреационные ресурсы
Рекреационные ресурсы бывают двух видов:

A) Орографические
B) Природные
C) Ландшафтные
D) Климатические
E) Культурно-исторические
F) Биотические

Ответ: B) Природные, E) Культурно-исторические

30) Тема: Международные экономические союзы
В таможенно-экономический союз Бенилюкс входят государства:

A) Италия
B) Бельгия
C) Нидерланды
D) Люксембург
E) Япония
F) Украина

Ответ: B) Бельгия, C) Нидерланды, D) Люксембург

31) Тема: Физико-географические районирование Казахстана

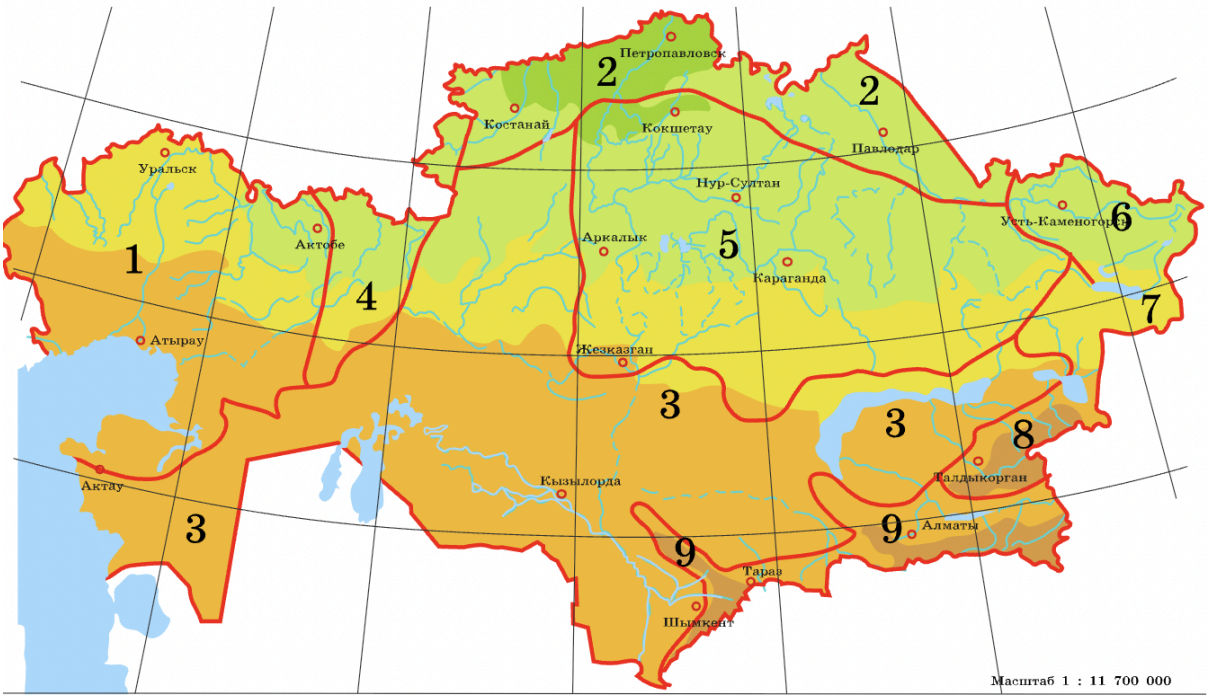

Физико-географический район, где располагается низкая точка Казахстана (−132 м):

A) Туранская равнина
B) Мелкосопочник Сарыарка
C) Горы Мугалжары
D) Восточно-Европейская равнина

Ответ: A) Туранская равнина

32) Тема: Физико-географические районирование Казахстана

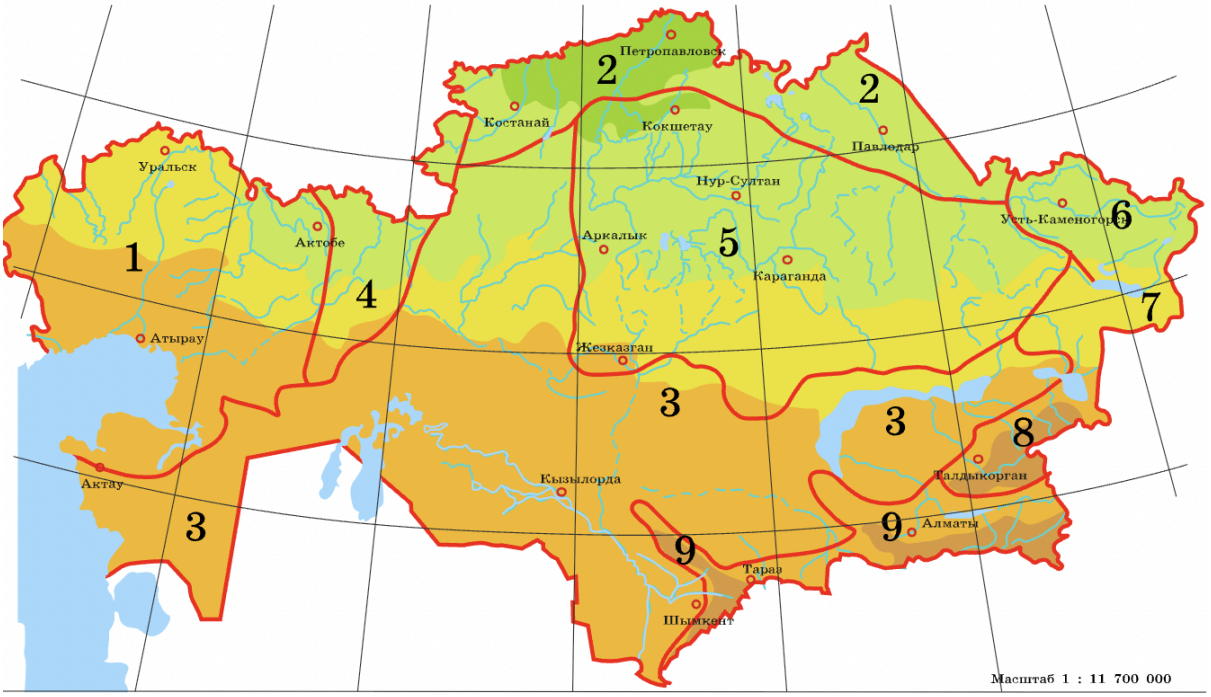

Физико-географический район, расположенный на юго-востоке страны:

A) Горы Саур-Тарбагатай
B) Горы Тянь-Шань
C) Горы Мугалжары
D) Мелкосопочник Сарыарка

Ответ: B) Горы Тянь-Шань

33) Тема: Физико-географические районирование Казахстана

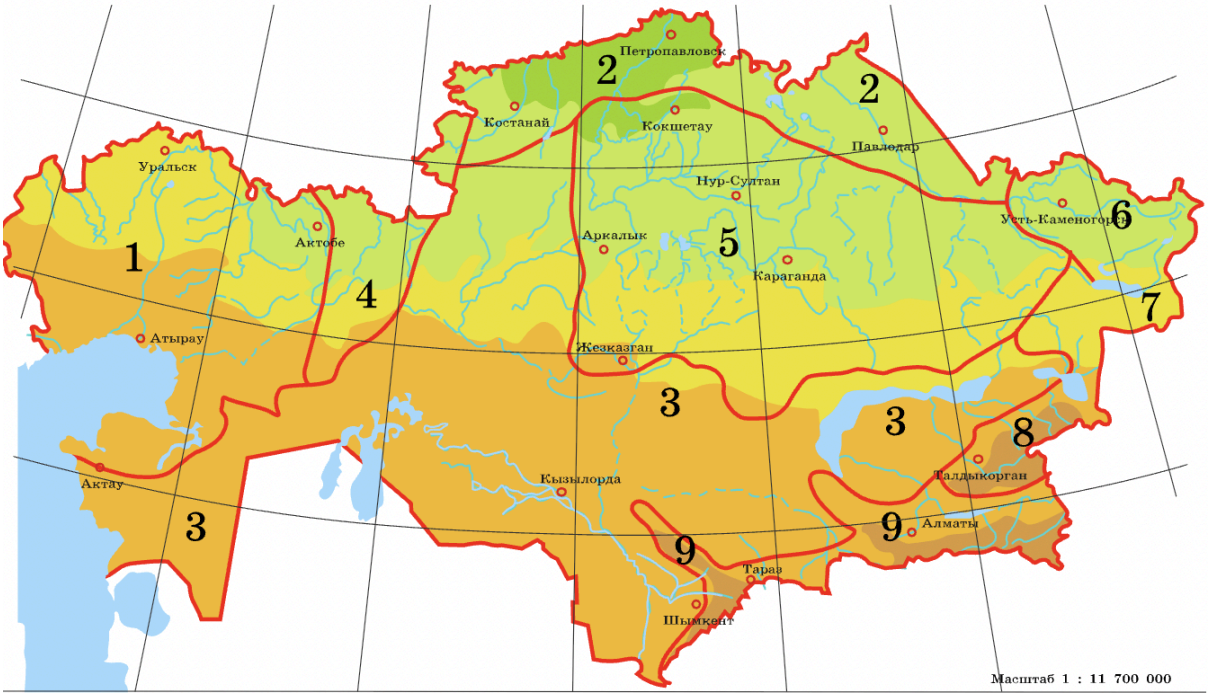

Наивысшая точка Сарыарки:

A) Аксоран
B) Белуха
C) Бесшокы
D) Сункар

Ответ: A) Аксоран

34) Тема: Физико-географические районирование Казахстана

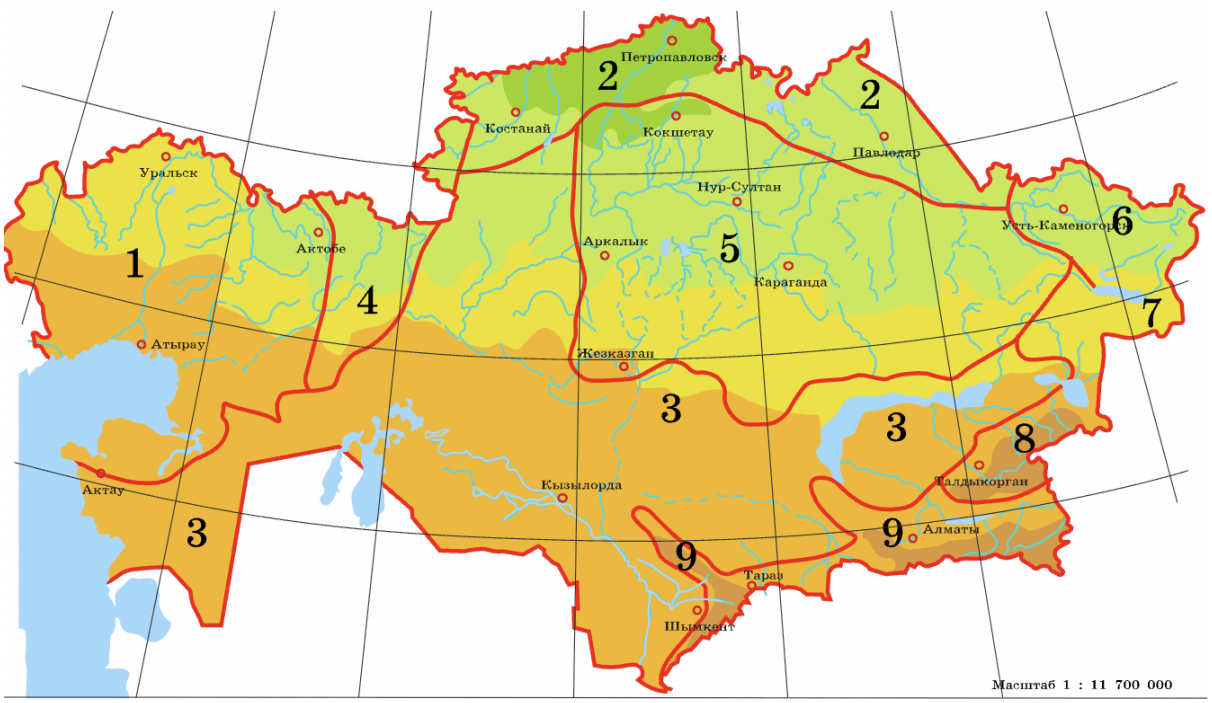

Крупные озера Казахстана расположены:

A) В горах Мугалжары
B) На Сарыарке
C) В горах Тянь-Шань
D) На Туранской равнине

Ответ: D) На Туранской равнине

35) Тема: Физико-географические районирование Казахстана

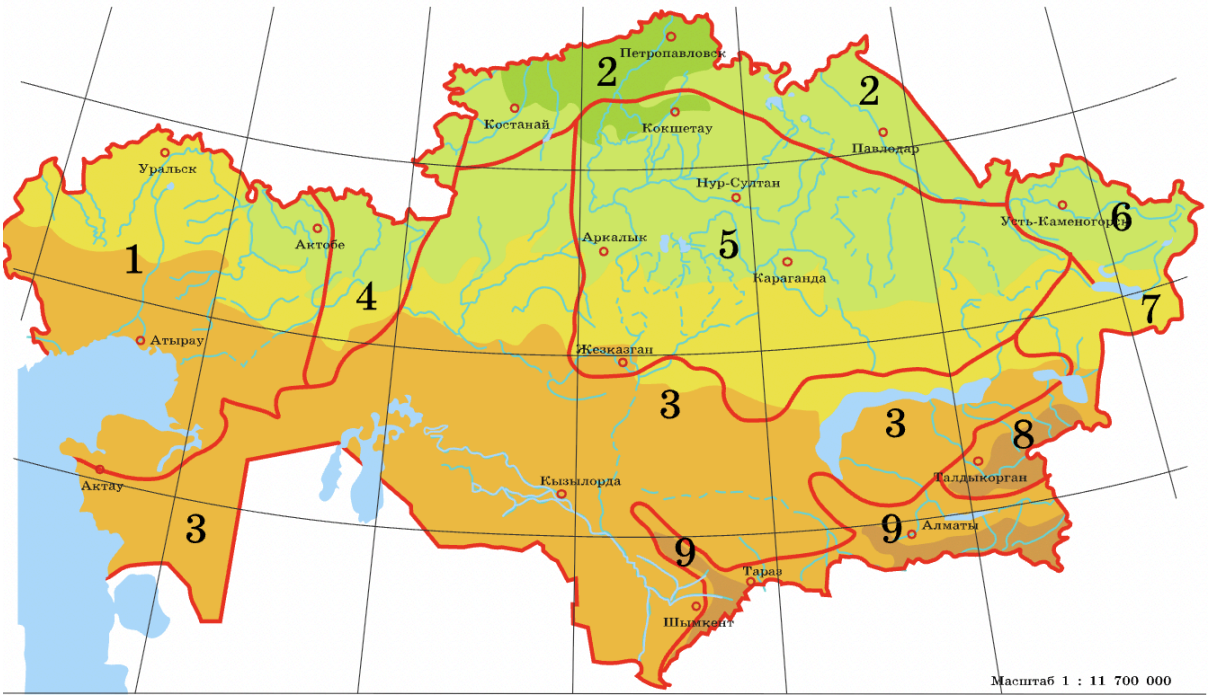

Физико-географический район, разделяющий Сарыарку от Мугалжар:

A) Западно-Сибирская равнина
B) Алтайские горы
C) Туранская равнина
D) Горы Жетысуский Алатау

Ответ: C) Туранская равнина

5 ВАРИАНТ

1) Тема: Астрономические явления
Вследствие аналогичности времени вращения Луны вокруг своей оси и времени ее вращения вокруг Земли:

A) Видна только одна сторона Луны
B) Происходит смена времени суток
C) Образуются приливы и отливы
D) Происходят цунами

Ответ: A) Видна только одна сторона Луны

2) Тема: Государства мира и их классификация
Какие из перечисленных стран принадлежат к категории «карликовых» государств?

A) Лихтенштейн, Греция, Сан-Марино
B) Мальта, Ватикан, Сан-Марино

C) Андорра, ФРГ, Австрия
D) Люксембург, Швеция, Андорра

Ответ: B) Мальта, Ватикан, Сан-Марино

3) Тема: Экономические регионы Казахстана
Укажите экономический регион нашей страны, состоящий из одной области:

A) Южный
B) Западный
C) Центральный
D) Северный

Ответ: C) Центральный

4) Тема: Научно-технический прогресс
Процесс преобразования производительных сил человечества путем внедрения научно обоснованных технологий:

A) Научно-техническая революция (НТР)
B) Механизация производства
C) Электрификация
D) Автоматизация производства

Ответ: A) Научно-техническая революция (НТР)

5) Тема: Типы капитализма в странах мира
Страны «переселенческого капитализма»:

A) Индия, Франция
B) Канада, Италия
C) Мексика, ФРГ
D) Австралия, Израиль

Ответ: D) Австралия, Израиль

6) Тема: Озёра мира
Укажите озеро в Северной Америке, являющееся самым большим:

A) Эри
B) Атабаска
C) Верхнее
D) Онтарио

Ответ: C) Верхнее

7) Тема: Промышленные центры Казахстана
Выберите город, где расположен полиметаллический комбинат:

A) Риддер
B) Караганда
C) Актобе
D) Петропавловск

Ответ: A) Риддер

8) Тема: Научно-техническая революция (НТР)
Укажите условие для развития производства в период НТР:

A) Увеличение числа квалифицированных специалистов
B) Снижение затрат энергии
C) Увеличение объёмов добычи минерального сырья
D) Сокращение информационного пространства

Ответ: A) Увеличение числа квалифицированных специалистов

9) Тема: Энергетика стран мира
Ведущий тип электростанций во Франции:

A) ГЭС
B) ТЭС
C) СЭС
D) АЭС

Ответ: D) АЭС

10) Тема: Великие географические открытия
Исследовал северное и восточное побережья Северной Америки:

A) А. Веспуччи
B) Д. Кук
C) Д. Кабот
D) Г. Гудзон

Ответ: D) Г. Гудзон

11) Тема: Почвы и почвенная эрозия
Какая разновидность эрозии почв связана с частыми сильными ветрами, легким механическим составом почв в условиях равнинного рельефа?

A) Агротехническая
B) Ветровая
C) Химическая
D) Физическая

Ответ: B) Ветровая

12) Тема: Население и языки мира
В какой провинции Канады преимущественно проживают франкоговорящие канадцы?

A) Манитоба
B) Онтарио
C) Саскачеван
D) Квебек

Ответ: D) Квебек

13) Тема: Полезные ископаемые Грузии
Месторождения угля в Грузии:

A) Ткибули, Ткварчели
B) Хайдаркен, Чубай
C) Нафталан, Дашкесан
D) Алаверди, Каджаран

Ответ: A) Ткибули, Ткварчели

14) Тема: Энергетические ресурсы Центральной Азии
Из стран Центральной Азии крупнейшие запасы гидроэнергии имеются в:

A) Узбекистане
B) Киргизии
C) Туркмении
D) Таджикистане

Ответ: D) Таджикистане

15) Тема: Реки Казахстана
Какая из перечисленных рек протекает по территории Восточно-Казахстанской и Павлодарской областей?

A) Талас
B) Сарысу
C) Ертис
D) Шу

Ответ: C) Ертис

16) Тема: Географические координаты
Назовите термин, обозначающий систему параллелей и меридианов, указывающих координаты в градусах:

A) Градусная сетка
B) Миллиметровая сетка
C) Километровая сетка
D) Сантиметровая сетка

Ответ: A) Градусная сетка

17) Тема: Атмосферные явления и климат
Если при температуре –30ºС абсолютная влажность воздуха 7,5 г, то относительная влажность воздуха:

Количество водяного пара при разных температурах на 1 м^3						
Температура (С^0)	30^0	20^0	10^0	0^0	-10^0	20^0
Водяной пар (грамм)	30	17	9	5	2	1

A) 75%
B) 15%
C) 100%
D) 25%

Ответ: D) 25%

18) Тема: Рельеф Земли
К какой категории возвышенностей относятся Анды, Алтай, Памир?

A) Нагорье
B) Высокогорье
C) Равнины
D) Мелкосопочники

Ответ: B) Высокогорье

19) Тема: География населения
Прочтите текст и рассчитайте количество населения, проживающего в рискованных территориях:

Область А расположена в слегка засушливой горной местности, с населением 1500 тыс. человек, общая площадь долинных комплексов в зоне риска составляет 600 км². Плотность населения в пределах долинных комплексов 312 чел./км².

A) 28 650 человек
B) 187,2 тыс. человек
C) 15 376 человек
D) 416,4 тыс. человек

Ответ: B) 187,2 тыс. человек

20) Тема: Мировое хозяйство
Назовите три крупных центра мирового хозяйства:

A) Европа, США, Япония
B) Латинская Америка, Канада, Юго-Восточная Азия

C) КНР, «Азиатские тигры», страны арабского мира
D) США, Африка, Япония

Ответ: A) Европа, США, Япония

21) Тема: Природные заповедники Казахстана
В каком из перечисленных заповедников сосны растут на засоленных почвах?

A) В Наурзумском
B) В Устиртском
C) В Алматинском
D) В Аксу-Жабаглинском

Ответ: A) В Наурзумском

22) Тема: Климат Африки
Самый влажный район Африки:

A) Юго-западные склоны Камеруна
B) Эфиопское нагорье
C) Драконовы горы
D) Северные склоны гор Атлас

Ответ: A) Юго-западные склоны Камеруна

23) Тема: Реки Казахстана
Укажите реку, которая протекает на границе трех государств – Республики Казахстан, Российской Федерации и Китайской Народной Республики:

A) Иле
B) Сырдарья
C) Шу
D) Ертис (Иртыш)

Ответ: D) Ертис (Иртыш)

24) Тема: Рельеф Казахстана
Укажите, где расположена высшая точка Сарыарки:

A) Улытау
B) Баянауыл
C) Кокшетау
D) Кызылрай

Ответ: D) Кызылрай

25) Тема: Международные организации
Какая аббревиатура обозначает организацию стран, расположенных в Юго-Восточной Азии?

A) ЛАГ
B) СНГ
C) АЭС
D) АСЕАН

Ответ: D) АСЕАН

26) Тема: Стороны горизонта
Промежуточные стороны горизонта:

A) Север
B) Юго-восток, юго-запад
C) Север, северо-восток
D) Северо-восток, северо-запад
E) Юг, юго-запад
F) Восток

Ответ: B) Юго-восток, юго-запад, D) Северо-восток, северо-запад

27) Тема: Экономические районы Казахстана
Города Южного Казахстана:

A) Туркестан
B) Семипалатинск
C) Павлодар
D) Караганда
E) Актау
F) Шымкент

Ответ: A) Туркестан, F) Шымкент

28) Тема: Полезные ископаемые Казахстана
В городе Риддер ведется добыча:

A) Хрома
B) Никеля
C) Алюминия
D) Железа
E) Свинца
F) Цинка

Ответ: E) Свинца, F) Цинка

29) Тема: Экономико-географическое положение Казахстана
Укажите преимущества экономико-географического положения нашей страны:

A) Свободный выход в Китай и Тихий океан через реку Или
B) Благодаря расположению на Каспийском побережье, есть выход в Атлантический океан по Волго-Донскому каналу
C) Улучшение политико-экономического положения через соседство с Китаем и

Россией
D) Выход в страны Центральной Азии через Узбекистан
E) Равнинный рельеф местности неудобен для проведения строительных работ
F) Транзитный путь между Восточной Азией и Европой

Ответ: B) Благодаря расположению на Каспийском побережье, есть выход в Атлантический океан по Волго-Донскому каналу, C) Улучшение политико-экономического положения через соседство с Китаем и Россией, F) Транзитный путь между Восточной Азией и Европой

30) Тема: Мировой океан и волны
Длинные пологие волны, которые растягиваются в длину, называются:

A) Длиной волны
B) Приливом
C) Мертвой зыбью
D) Скоростью волны
E) Подошвой волны
F) Гребнем волны

Ответ: C) Мертвой зыбью

31)

Для развития инфраструктуры и различных видов хозяйственных работ нам необходимо подробное изображение определенной местности т.е. план, на котором нанесен каждый объект - дом, мост, родник… Такой чертеж называется планом местности, в котором использованы условные обозначения и горизонтали. Все объекты изображаются на планах местности при помощи цвета и условных знаков. При составлении плана местности используется глазомерная съемка: маршрутная (с точек съемного хода) и полярная (с одной точки).

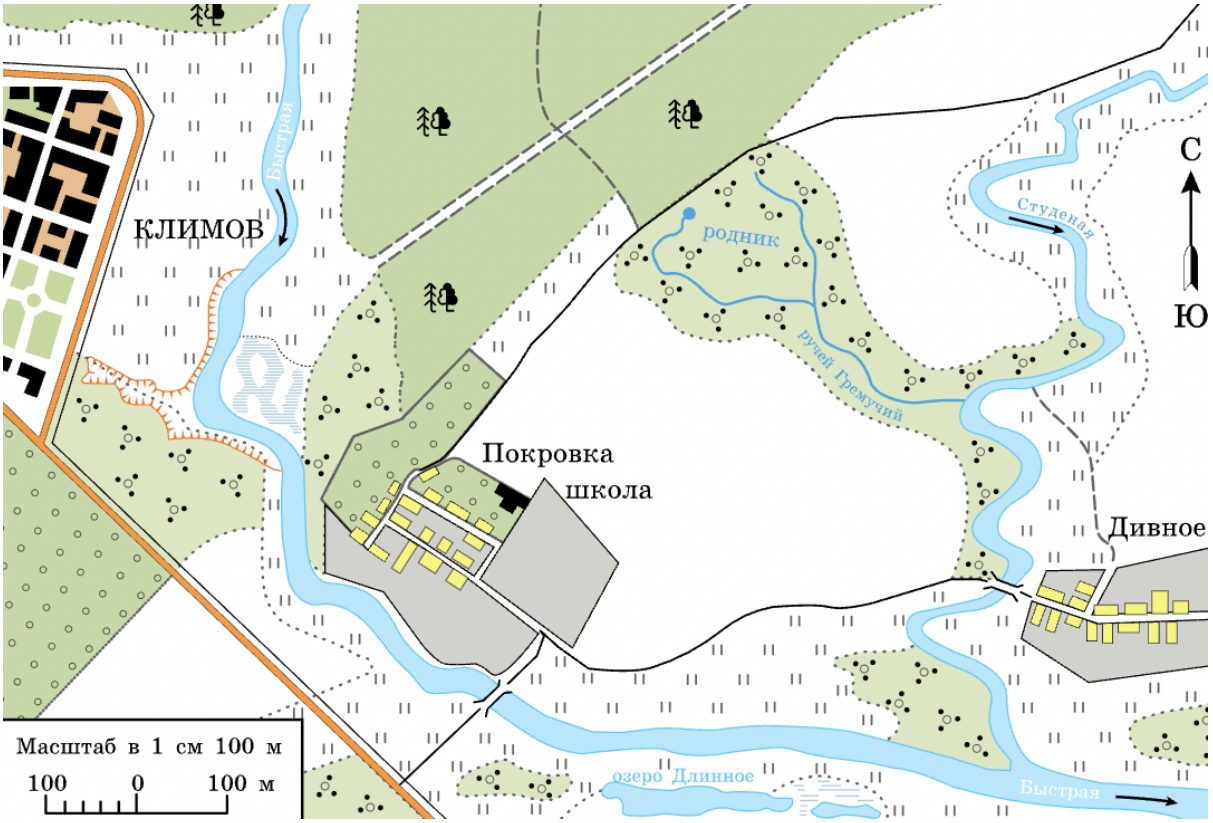

Неровности поверхности Земли на планах показывают с помощью:

A) Параллелей
B) Горизонталей
C) Цвета
D) Меридианов

Ответ: B) Горизонталей

32)

Для развития инфраструктуры и различных видов хозяйственных работ нам необходимо подробное изображение определенной местности т.е. план, на котором нанесен каждый объект - дом, мост, родник… Такой чертеж называется планом местности, в котором использованы условные обозначения и горизонтали. Все объекты изображаются на планах местности при помощи цвета и условных знаков. При составлении плана местности используется глазомерная съемка: маршрутная (с точек съемного хода) и полярная (с одной точки).

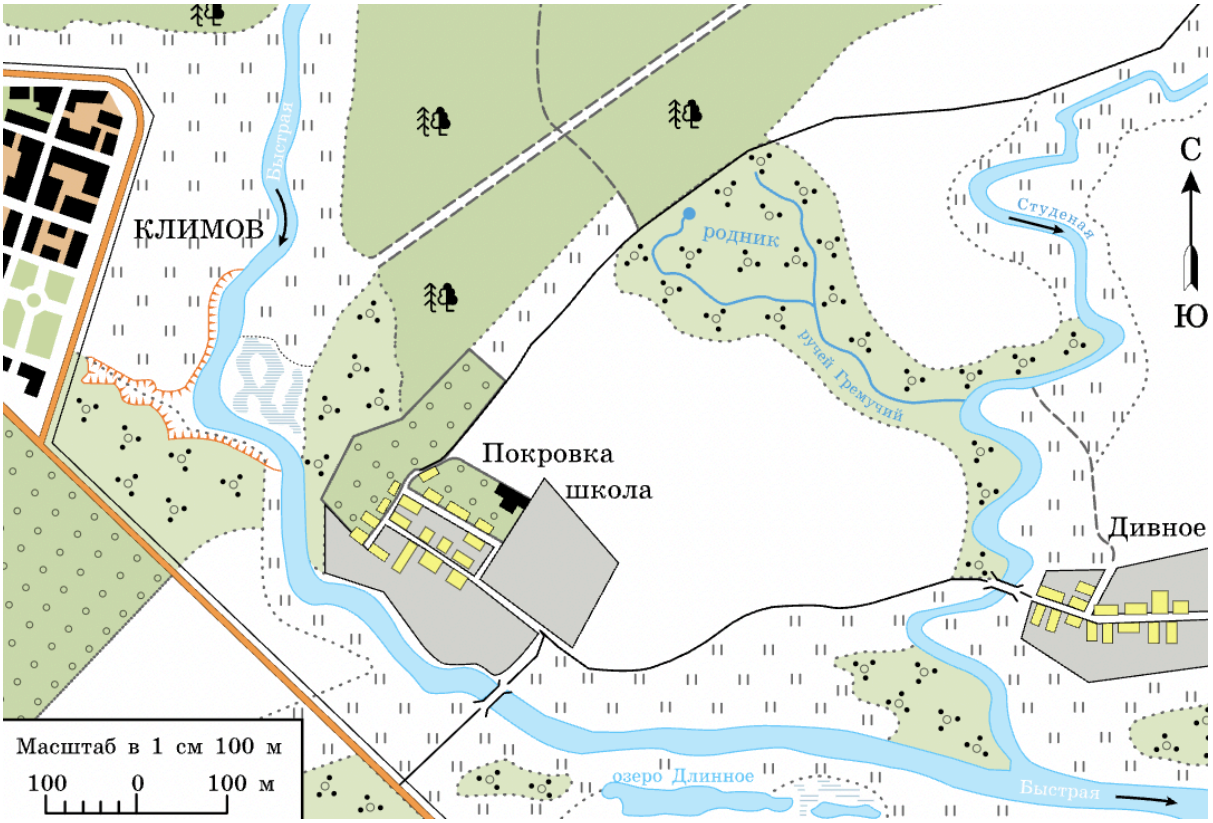

Масштаб плана местности:

A) 1:5000
B) 1:1000000
C) 1:10000000
D) 1:100000

Ответ: A) 1:5000

33)

Для развития инфраструктуры и различных видов хозяйственных работ нам необходимо подробное изображение определенной местности т.е. план, на котором нанесен каждый объект - дом, мост, родник… Такой чертеж называется планом местности, в котором использованы условные обозначения и горизонтали. Все объекты изображаются на планах местности при помощи цвета и условных знаков. При составлении плана местности используется глазомерная съемка: маршрутная (с точек съемного хода) и полярная (с одной точки).

Что обозначает этот знак?

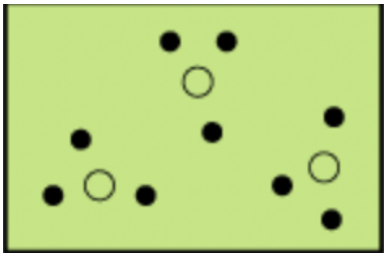

A) Озеро
B) Поле
C) Кустарник
D) Овраг

Ответ: C) Кустарник

34)

Для развития инфраструктуры и различных видов хозяйственных работ нам необходимо подробное изображение определенной местности т.е. план, на котором нанесен каждый объект - дом, мост, родник… Такой чертеж называется планом местности, в котором использованы условные обозначения и горизонтали. Все объекты изображаются на планах местности при помощи цвета и условных знаков. При составлении плана местности используется глазомерная съемка: маршрутная (с точек съемного хода) и полярная (с одной точки).

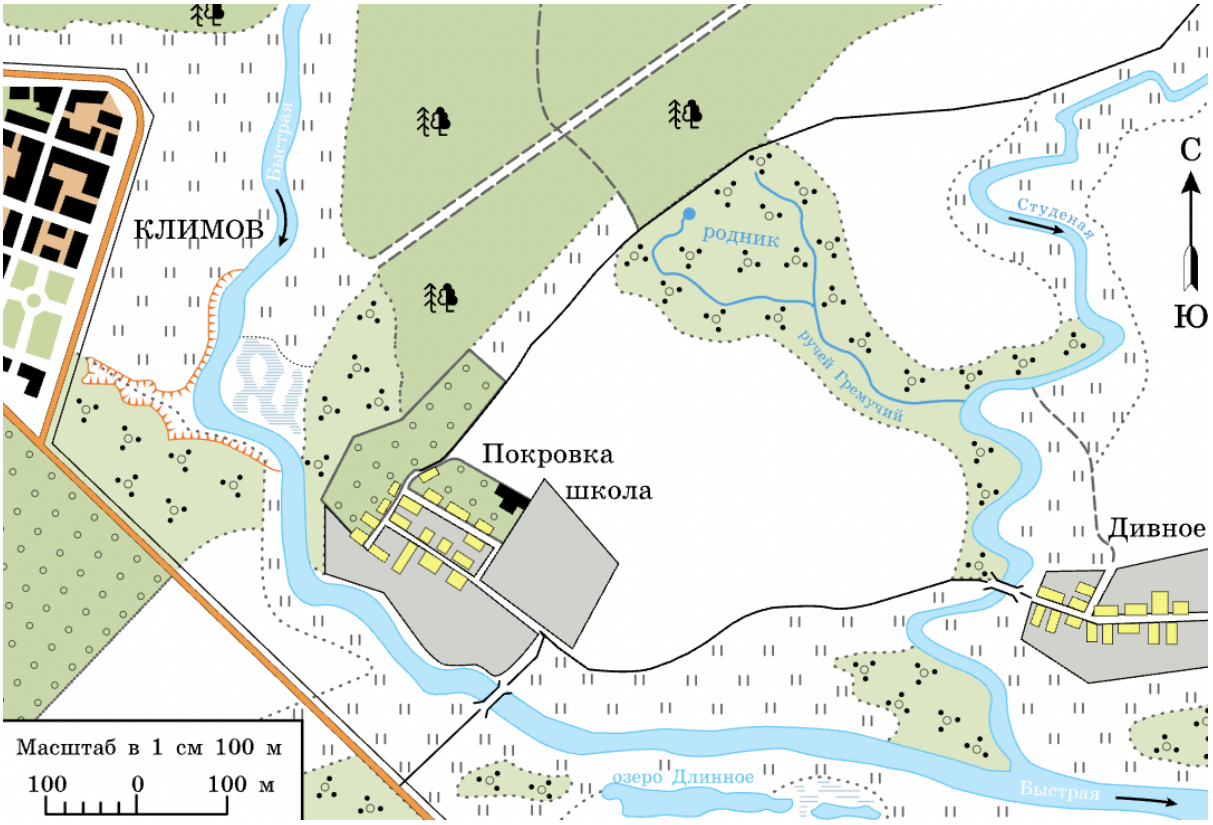

План местности — это …

A) Чертеж
B) Рисунок
C) Линии
D) Схема

Ответ: A) Чертеж

35)

Для развития инфраструктуры и различных видов хозяйственных работ нам необходимо подробное изображение определенной местности т.е. план, на котором нанесен каждый объект - дом, мост, родник… Такой чертеж называется планом местности, в котором использованы условные обозначения и горизонтали. Все объекты изображаются на планах местности при помощи цвета и условных знаков. При составлении плана местности используется глазомерная съемка: маршрутная (с точек съемного хода) и полярная (с одной точки).

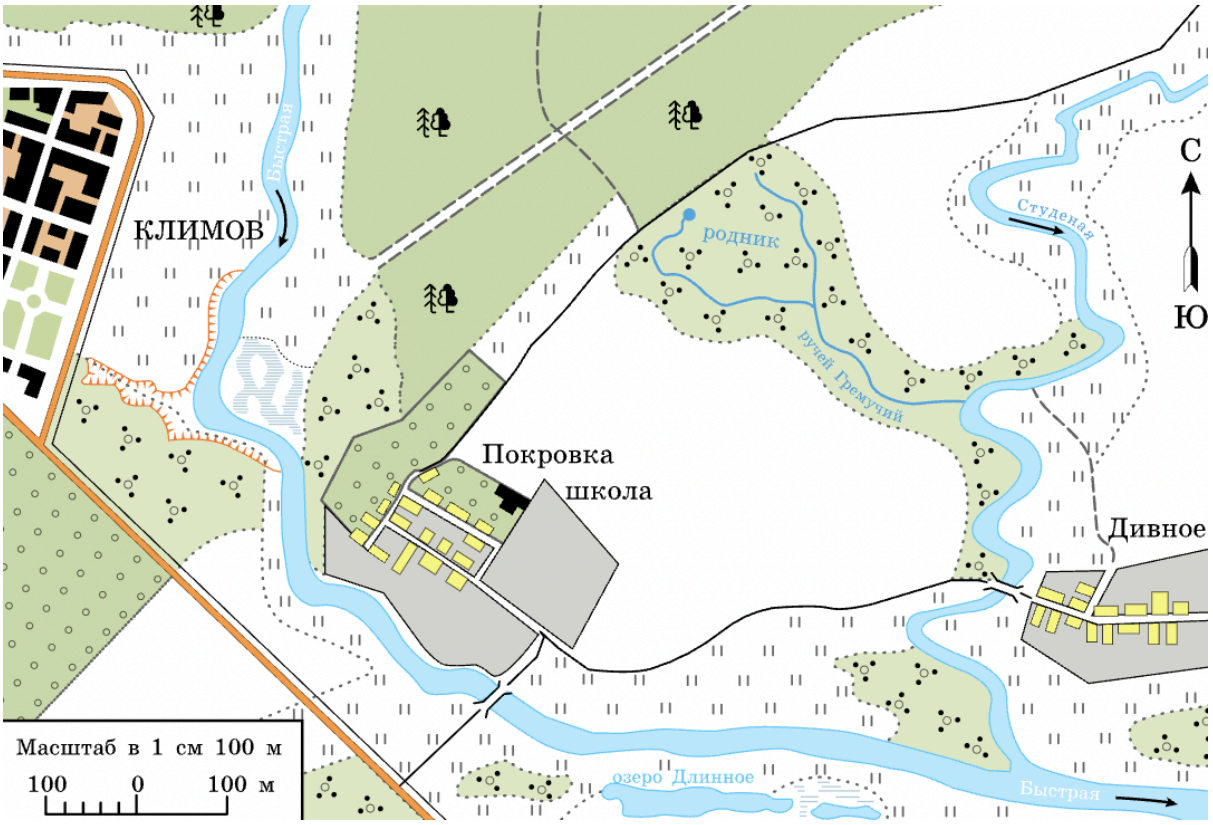

Озера на плане местности окрашены … цветом:

A) Голубым
B) Зеленым
C) Желтым
D) Черным

Ответ: A) Голубым